النماذج الأكثر تكرارًا 2

السؤال ١

أوجد قيمة : $\frac{١}{٣} + \frac{\frac{١}{٣}}{١ + \frac{١}{٣}} =$

أ) $\frac{٣}{٤}$ ب) $\frac{٧}{١٢}$ ج) ٥ د) ١٢

السؤال ٢

أوجد قيمة س

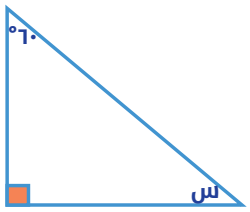

أ) ٣٠ ب) ٤٠ ج) ٥٠ د) ٦٠

السؤال ٣

فستان إذا أضفنا إليه ٥٠٠ ريال اصبح يساوي ٥ أمثال
قيمة الفستان مطروح منه ٩٠٠ ريال ، فكم قيمة الفستان ؟

أ) ٣٠٠ ب) ٣٥٠ ج) ٤٠٠ د) ٤٥٠

السؤال ٤

إذا كان $س^٢ - ص^٢ = ل$ ، س + ص = م، أوجد قيمة س - ص

أ) ل م ب) ل + م ج) $\frac{ل}{م}$ د) $\frac{م}{ل}$

السؤال ٥

إذا كان متوسط درجات طلاب فصل ٨٥
وهناك طالب غائب وعند إعادة اختباره حصل على ٣٠ درجة
واصبح متوسط درجات طلاب الفصل ٨٠ ، ما عدد طلاب الفصل؟

أ) ٩ ب) ١٠ ج) ١١ د) ١٢

السؤال ٦

الشكل المجاور يمثل جنسيات موظفين شركة عدد الموظفين بها ٤٢٠ ،
إذا أرادت الشركة زيادة الموظفين السعوديين
إلى ٥٠ ٪ عن طريق استبدال بعض موظفي الشركة
من جنسيات الأخرى ، فكم سعودياً توظف؟

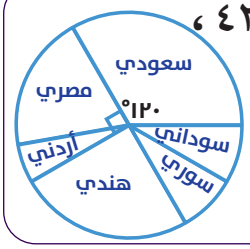

أ) ٧٠ ب) ٧٥ ج) ٨٠ د) ٨٥

السؤال ٧

في الشكل المجاور: ٧مربعات ، مساحة المربع الواحد ١٦ سم^{٢}، أوجد محيط الشكل

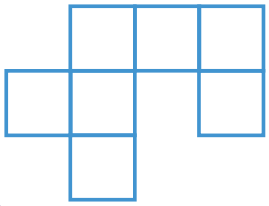

أ) ١٦ ب) ٣٢ ج) ٦٤ د) ١١٢

السؤال ٨

عددان مكونان من رقمين ، أحاد أحدهما يساوي عشرات العدد الآخر والعكس ، والفرق بين العددين = ١٨ ، ما أحد هذين العددين؟

أ) ٧٤ ب) ٦٤ ج) ٨٥ د) ٩٤

السؤال ٩

ما العام الذي فيه عدد المقبولين أقل من ٣٪ من عدد المطبقين ؟

العام	مطبق	مقبول
٢٠١٠	٣٠٠٠	١٥٠
٢٠١١	٤٥٠٠	٣٥٠٠
٢٠١٢	٥٠٠٠	١٦٠
٢٠١٣	٨٥٠٠	١٧٠
٢٠١٤	٦٠٠٠	٥٠٠

أ) ٢٠١٠ ب) ٢٠١١ ج) ٢٠١٢ د) ٢٠١٣

السؤال ١٠

أي المدن في زيادة مطردة ؟

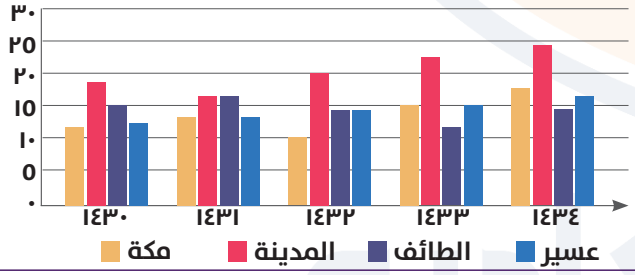

أ) مكة ب) المدينة ج) الطائف د) عسير

السؤال ١١

أوجد قيمة (٢١٣)^{٢} - (٢١٢)^{٢}

أ) ٤٥٠ ب) ٤٢٥ ج) ٤١٥ د) ٤٢٥^{٢}

السؤال ١٢

لدينا غرفة طولها ١٠ م ، وعرضها ٦م ، وتحتاج ٣ طن لتبريدها ، ما ارتفاع الغرفة بالمتر؟

	وحدة حرارية
١ م³	٣٠٠
١ طن	١٢٠٠٠

أ ١,٥ ب ٢ ج ٣ د ٤

السؤال ١٣

إذا كان أحمد مثلي طول خالد ، وكان طول خالد ٧٠ ٪ من طول سعد ، وكان هادي ١٢٠ ٪ من طول أحمد، فمن أقصر واحد ؟

أ أحمد ب خالد ج سعد د هادي

السؤال ١٤

(س + ٣)٢٢ = ٢٢٩ ، أوجد قيمة س

أ ٣ ب ٥ ج ٦ د ٧

السؤال ١٥

إذا كان محيط المثلث = ٢٨

قارن بين

القيمة الأولى	القيمة الثانية
$\frac{س}{٢} + ١$	$\frac{\sqrt{س + ١}}{٢}$

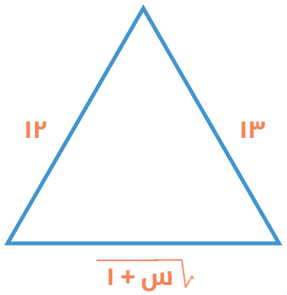

أ القيمة الأولى أكبر ب القيمة الثانية أكبر ج القيمتان متساويتان د المعطيات غير كافية

السؤال ١٦

قارن بين

القيمة الأولى	القيمة الثانية
$\frac{٦}{٥} \div \frac{٥}{٦}$	$\frac{٥}{٦} \div \frac{٦}{٥}$

أ القيمة الأولى أكبر ب القيمة الثانية أكبر ج القيمتان متساويتان د المعطيات غير كافية

السؤال ١٧ ما نسبة الأسلحة الغير تالفة؟

العدد الكلي للأسلحة	١٢٠ رشاش
الأسلحة التالفة جزئيًا	٣٥ رشاش
الأسلحة التالفة كليًا	٤٥ رشاش

أ) ٣٠٪ ب) ٣٣٪ ج) ٤٠٪ د) ٦٧٪

السؤال ١٨ إذا كان محيط المثلث = ٢٨

قارن بين

القيمة الأولى	القيمة الثانية
$٤^{٥}$	٤ × ٤ × ٤ × ٤ × ٤

أ) القيمة الأولى أكبر ب) القيمة الثانية أكبر ج) القيمتان متساويتان د) المعطيات غير كافية

السؤال ١٩ إذا كان نصف قطر الدائرة = ٣ ،
وقاعدة المتوازي في مركز الدائرة ،
كم مساحة المنطقة المظللة؟

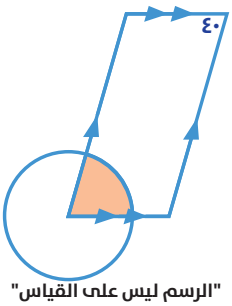

"الرسم ليس على القياس"

أ) ط ب) ٢ط ج) ٣ط د) ٥ط

السؤال ٢٠ يستخدم أحمد العد القفزي بمقدار ٥ أعداد،
ويستخدم ناصر العد القفزي بمقدار ٣ أعداد،
فإذا كانت بدايتهما من الصفر ونهايتهما قبل العدد ١٠٠ ،
فكم عدد الأعداد المشتركة بينهما؟

أ) ٤ ب) ٥ ج) ٦ د) ٧

السؤال ٢١ إذا كانت جميع الدوائر متطابقة و مساحة الدائرة ٩ط ،
أوجد مساحة المستطيل

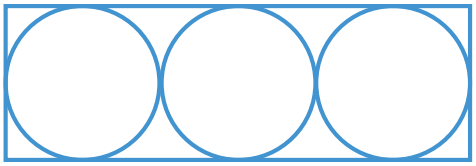

أ) ١٠٨ ب) ٩٠ ج) ١٢٠ د) ٦٠

السؤال ٢٢

أوجد قيمة : $\sqrt[٨]{٨١ \times ٨١ \times ٨١ \times ٨١}$

أ) $٣^{٢}$ ب) $٣^{\frac{١}{٢}}$ ج) $٣^{٤}$ د) $٣^{٣}$

السؤال ٢٣

إذا كانت : ٥ × ٥ × ٥ × ٥ × س = ١٠ × ١٠ × ص

قارن بين

القيمة الأولى	القيمة الثانية
س	ص

أ) القيمة الأولى أكبر ب) القيمة الثانية أكبر ج) القيمتان متساويتان د) المعطيات غير كافية

السؤال ٢٤

ما قيمة نصف الحد الخامس : ١١ ، ٢٢ ، ٤٤ ، ٨٨ ، .....

أ) ٩٩ ب) ٤٤ ج) ٨٨ د) ٦٦

السؤال ٢٥

(ص ، ٥) ، (٥ ، ٩) ، (٣ ، س) ، (٥ ، ٩) نقطة منتصف بينهم

قارن بين

القيمة الأولى	القيمة الثانية
ص	س

أ) القيمة الأولى أكبر ب) القيمة الثانية أكبر ج) القيمتان متساويتان د) المعطيات غير كافية

السؤال ٢٦

$(٩٩٩)^{٢} - ١ =$ .....

أ) $٩٩٩^{٢}$ ب) $٩٩٨^{٢}$ ج) ٩٩٨٠٠٠ د) ٩٩٩٠٠

السؤال ٢٧

سيارة تقطع مسافة ٧٢ كلم في ٣٢ دقيقة ،
فكم سرعتها بال كلم / س ؟

أ) $٩٩٩^{٢}$ ب) $٩٩٨^{٢}$ ج) ٩٩٨٠٠٠ د) ٩٩٩٠٠

السؤال ٢٨

إذا كانت ، - ($\frac{١}{٢}$ س)$^{-٣}$ = ٨ ،
أوجد قيمة س

أ) -١ ب) ١ ج) ٥ د) $\frac{١}{٢}$

السؤال ٢٩

إذا باع شخص ٦ بطاريات بـ ٣٠٠ ريال، فبكم سيبيع ١٠ بطاريات؟

أ) ٦٠٠ ب) ١٠٠ ج) ٥٠٠ د) ٥٥٠

السؤال ٣٠

سيارتان تسيران بعكس الاتجاه من نفس النقطة،
الأولى بسرعة س كم/س والثانية بسرعة ص كم/س،
ما العلاقة التي تمثل المسافة بينهما بعد ساعة؟

أ) ص × س ب) $\frac{ص}{س}$ ج) ص - س د) ص + س

السؤال ٣١

إذا كان ٢^{س} = ٣ ، فإن ٨^{س}

أ) ٩ ب) ١٦ ج) ٢٧ د) ٨١

السؤال ٣٢

اشترى تاجر سلعة ب ٩٠ ريال ويبيعها بربح ٥٠ ٪
وأي مشتري يدفع نقدًا له خصم ٣٠ ٪ من سعر البيع ،
ما نسبة ربح التاجر إذا باع السلعة نقدًا ؟

أ) ١٦٪ ب) ٥٪ ج) ١١٪ د) ٢٠٪

السؤال ٣٣

ثلاثة أعداد متتالية أحدهم ١١ وحاصل ضربهم ٩٩٠ ،
فما مجموع هذه الأعداد ؟

أ) ٢٧ ب) ٣٠ ج) ٣٢ د) ٣٦

السؤال ٣٤ أوجد قيمة س في الشكل المجاور :

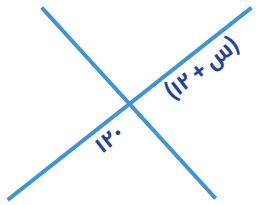

أ) ٦٠ ب) ٧٥ ج) ٨٠ د) ٤٨

السؤال ٣٥ في الشكل التالي، دائرة مركزها م، ونصف قطرها ٤ سم ، كم سنتيمترًا مربعًا مساحة الجزء المظلل؟

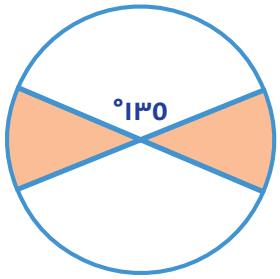

"الرسم ليس على القياس"

أ) ١٢ط ب) ١٠ط ج) ٦ط د) ٤ط

السؤال ٣٦ إذا كان س + ٤ = ١٠ ، أوجد قيمة س

أ) ٢ ب) ٤ ج) ٦ د) ٨

السؤال ٣٧ في الشكل المجاور : أوجد قيمة هـ

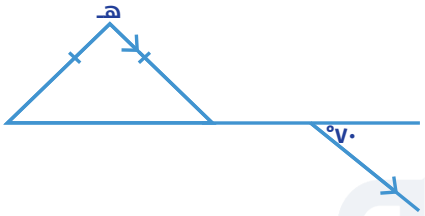

أ) ٧٠ ب) ١١٠ ج) ٤٠ د) ٦٠

السؤال ٣٨ المثلثان متشابهان ، أوجد قيمة س

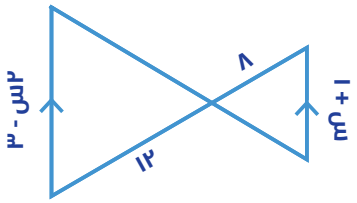

أ) ٦ ب) ٧ ج) ٨ د) ٩

السؤال ٣٩

إذا كان : ١٤ < س < ص < ع < ٢٦
س و ص و ع أعداد فردية متتالية أحدهم عدد أولي أوجد ص+ع

أ) ٣٩ ب) ٤٠ ج) ٤٤ د) ٤٨

السؤال ٤٠

نادي به ٥٠ مشترك ، ٣٠ منهم مشتركين في كرة القدم
و ٢٦ مشتركين في السباحة و ٦ غير مشتركين في كرة القدم ولا السباحة ،
كم عدد المشتركين في كرة القدم والسباحة؟

أ) ٠ ب) ٦ ج) ١٢ د) ٤

السؤال ٤١

من الشكل المجاور
ما نسبة مساحة الدائرة
الصغرى إلى نسبة مساحة الدائرة الكبرى؟

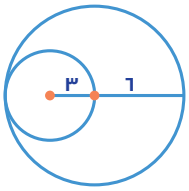

أ) ٤ : ٦ ب) ١ : ٤ ج) ٣ : ٨ د) ٢ : ٣

السؤال ٤٢

١ + ٢ + ٣ + ٤ + ٥ + ٦ + ٦ + ٥ + ٤ + ٣ + ٢ + ١

أ) ٧ × ٩ ب) ٧ × ٥ ج) ٧ × ٦ د) ٧ × ٤

السؤال ٤٣

أوجد الحد التالي : ٣ ، ٥ ، ٩ ، .....

أ) ١٦ ب) ١٧ ج) ١٨ د) ١٩

السؤال ٤٤

$(٠,٠١)^{٣}$ = ...

أ) ٠,٠٣٣٣٣ ب) ٠,٠٠٠٠٠١ ج) ٠,٠٠١٠٠١ د) ٠,٣٣٣٣

السؤال ٤٥

إذا كان ٣ أمثال عُمّر محمد أقل من عُمّر والده بثلاث سنوات ،
فكم سنة عُمّر والده إذا كان عُمّر محمد الآن ١٥ سنة ؟

أ) ٤٥ ب) ٤٦ ج) ٤٨ د) ٤٩

السؤال ٤٦ ما نسبة مساحة المثلث أ هـ ج إلى مساحة الشكل :

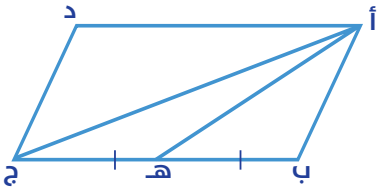

أ) $\frac{١}{٢}$ ب) $\frac{١}{٣}$ ج) $\frac{١}{٤}$ د) $\frac{١}{٨}$

السؤال ٤٧ قارن بين

القيمة الأولى	القيمة الثانية
١٠٠٪ من ٩٠	١٨٠

أ) القيمة الأولى أكبر ب) القيمة الثانية أكبر ج) القيمتان متساويتان د) المعطيات غير كافية

السؤال ٤٨ ما نسبة مساحة المثلث أ هـ ج إلى مساحة الشكل :

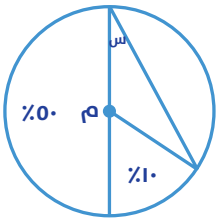

أ) ١٨ ب) ٣٦ ج) ٢٠ د) ٣٢

السؤال ٤٩ $\frac{٦٦٦}{٣٣٣} \left(\frac{٤٤٤}{٥٥٥} \div \frac{٤٤٤}{٥٥٥} \right)$

أ) ٢ ب) -٢ ج) ٦٦٦ د) ٣٣٣

السؤال ٥٠ في الشكل المجاور :
دائرة قطرها ٤ سم ، ما مساحة الجزء الغير مظلل؟

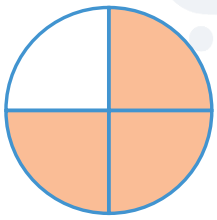

"الرسم ليس على القياس"

أ) ط ب) ٢ط ج) ٣ط د) ٤ط

السؤال ٥١

بعد سبع سنوات من الآن يصبح عُمر أم و ٣ من أبنائها ٩٢ عام ،
كم يصبح عمرهم بعد ٤ سنوات من الآن؟

أ) ٨٨ ب) ٨٧ ج) ٨٦ د) ٨٠

السؤال ٥٢

دفع احمد ٤٥ ٪ من تكلفة بناء مسجد وفهد دفع ٢٥ ٪ وتبقى ٣٦٠٠٠٠ ،
كم تكلفة المسجد كاملة

أ) ١٢٠٠٠٠٠ ب) ٣٦٠٠٠٠٠ ج) ٢٤٠٠٠٠٠ د) ١٠٠٠٠٠٠

السؤال ٥٣

في الشكل المجاور مستطيل احد بعديه فردي ،
أوجد محيطه

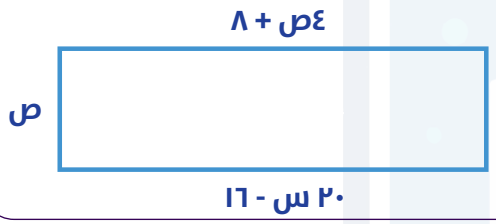

أ) ٥٦ ب) ٨٨ ج) ١٠٦ د) ١١٦

السؤال ٥٤

إذا كان صفر > ص > س

قارن بين

القيمة الأولى	القيمة الثانية
(س)^{٢٠١٦}	(ص)^{٢٠١٥}

أ) القيمة الأولى أكبر ب) القيمة الثانية أكبر ج) القيمتان متساويتان د) المعطيات غير كافية

السؤال ٥٥

إذا كان أ - ب = ٥ ، ب - ج = ٣ ، ج + د = ١ ، أوجد قيمة أ + د

أ) ٢ ب) ٤ ج) ٦ د) ٩

السؤال ٥٦

قارن بين

القيمة الأولى	القيمة الثانية
طول أب	طول ب ج

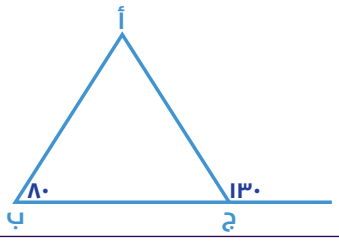

أ) القيمة الأولى أكبر ب) القيمة الثانية أكبر ج) القيمتان متساويتان د) المعطيات غير كافية

السؤال ٥٧

$\frac{س^{٥}}{٣٦} = \frac{٤}{٩ \times \frac{١}{٢}}$ فما قيمة س؟

أ) ٢ ب) ٤ ج) ٦ د) ٨

السؤال ٥٨

أوجد قيمة المجهول في الشكل التالي

؟	٧	ا
ط	خ	أ

أ) ١٢ ب) ١٣ ج) ١٤ د) ١٦

السؤال ٥٩

إذا كان أ = $\frac{١}{ب}$ ، ب = $\frac{١}{ج}$ ، ج = $\frac{١}{د}$ ، د = $\frac{٦٤}{٤٩}$ ،
كم ناتج (أ + ج) د ؟

أ) ٨ ب) ٦ ج) ٤ د) ٢

السؤال ٦٠

مع هند مبلغ من المال أعطت أختها ٣٥ ٪ من المبلغ و٢٥٪ لأخوها وتبقى لديها ٤٦ ريال ، فكم كان معها؟

أ) ١٠٣ ب) ١٠٦ ج) ١١٢ د) ١١٥

السؤال ٦١

إذا كان ص تتناسب عكسيًا مع س ، ص = ٤ عندما س = ٦ ،
أوجد قيمة ص عندما س = ١٢

أ) ٢ ب) ٤ ج) ٦ د) ٨

السؤال ٦٢

$(\frac{أ}{ب})^{٢} \times (\frac{ب}{أ})^{٣} \times (\frac{أ}{ب})^{٤} \times (\frac{ب}{أ})^{٥}$

أ) ١ ب) ٢ ج) $(\frac{ب}{أ})^{٢}$ د) ٥

السؤال ٦٣

إذا كان متوسط القيم ٣ ، ٨ ، ١٢ ، س يساوي ٢٠، ما قيمة س؟

أ) ٥٧ ب) ٦٦ ج) ٥٤ د) ٧٨

السؤال ٦٤

قارن بين

القيمة الأولى	القيمة الثانية
١٥٠٠ جرام	١,٥ كيلو جرام

أ القيمة الأولى أكبر
ب القيمة الثانية أكبر
ج القيمتان متساويتان
د المعطيات غير كافية

السؤال ٦٥

كم عدد الأسلحة الغير تالفة ؟

العدد الكلي للأسلحة	١٥٠
الأسلحة التالفة جزئيًا	٣٥
الأسلحة التالفة كليًا	٤٥

أ ٥٠
ب ٦٠
ج ٧٠
د ٨٠

السؤال ٦٦

أوجد قيمة س + ص

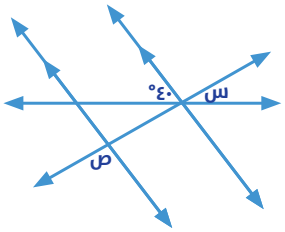

أ ١٦٠
ب ١٤٠
ج ١٢٠
د ١٠٠

السؤال ٦٧

أوجد طول نصف القطر
إذا كانت أ ب قطر الدائرة :

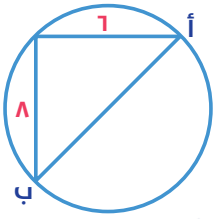

أ ١٠
ب ٥
ج ٨
د ٦

السؤال ٦٨

المثلثات و المربعات متطابقة

قارن بين

القيمة الأولى	القيمة الثانية
مساحة الشكل ١	مساحة الشكل ٢

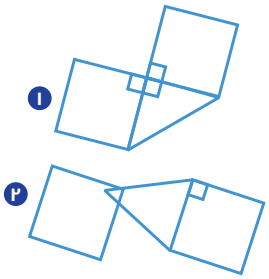

أ القيمة الأولى أكبر
ب القيمة الثانية أكبر
ج القيمتان متساويتان
د المعطيات غير كافية

السؤال ٦٩ أوجد قيمة س + ص

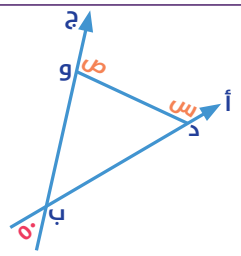

أ) ٢٢٠ ب) ٢٣٠ ج) ١٨٠ د) ٢٧٠

السؤال ٧٠ أوجد قيمة ص

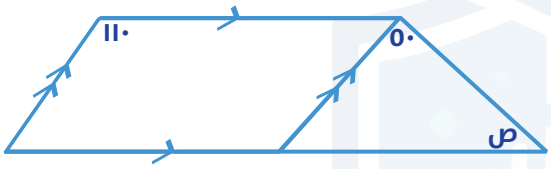

أ) ٦٠ ب) ٧٠ ج) ٩٠ د) ١١٠

السؤال ٧١ ما النسبة المئوية للعدد $\frac{١}{٣}$ ؟

أ) ٣٣٪ ب) $\frac{١}{٣}$ ٣٣٪ ج) $\frac{١}{٣}$ د) ٣٣,٣٪

السؤال ٧٢ في يوم العيد أطفال يقومون بتوزيع هدايا وكل طفل يوزع على جميع الأطفال ووصل عدد الهدايا إلى ١٢، كم عدد الأطفال؟

أ) ٤ ب) ٦ ج) ٣ د) ٥

السؤال ٧٣ أوجد محيط المربع ج د هـ و

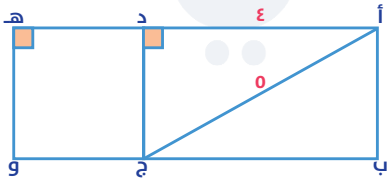

أ) ٦سم ب) ٩سم ج) ١٢سم د) ١٥سم

السؤال ٧٤

قارن بين

القيمة الأولى	القيمة الثانية
محيط دائرة نصف قطرها ٢ سم	محيط مستطيل عرضه ٢سم ، وطوله ٢

أ القيمة الأولى أكبر
ب القيمة الثانية أكبر
ج القيمتان متساويتان
د المعطيات غير كافية

السؤال ٧٥

قارن بين

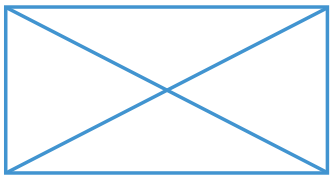

القيمة الأولى	القيمة الثانية
٦	عدد القطع المستقيمة في الشكل

أ القيمة الأولى أكبر
ب القيمة الثانية أكبر
ج القيمتان متساويتان
د المعطيات غير كافية

السؤال ٧٦

في الشكل المجاور : أسطوانة مملوءة بعصير

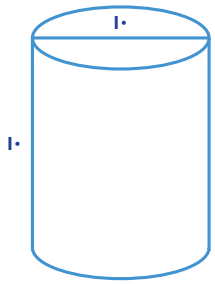

قارن بين

القيمة الأولى	القيمة الثانية
كمية العصير	٧٥٠

أ القيمة الأولى أكبر
ب القيمة الثانية أكبر
ج القيمتان متساويتان
د المعطيات غير كافية

السؤال ٧٧

قارن بين

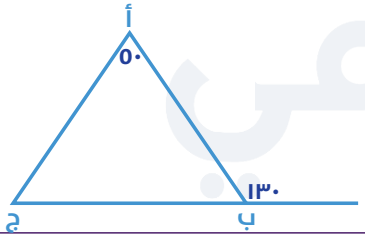

القيمة الأولى	القيمة الثانية
ب ج	أ ج

أ القيمة الأولى أكبر
ب القيمة الثانية أكبر
ج القيمتان متساويتان
د المعطيات غير كافية

السؤال ٧٨ إذا كان ٦ > س > ٤ ، ص = ٨

قارن بين

القيمة الأولى	القيمة الثانية
٠,٧٥	$\frac{س}{ص}$

أ القيمة الأولى أكبر
ب القيمة الثانية أكبر
ج القيمتان متساويتان
د المعطيات غير كافية

السؤال ٧٩ أوجد عدد سكان اليمن في الشكل المجاور

الدولة	المساحة	السكان	الكثافة
اليمن	٥٦٠٠٠٠	؟	١٤

أ ٧٨٤٠٠٠٠
ب ٧٨٤٠٠٠
ج ٤٠٠٠٠
د ٤٠٠٠

السؤال ٨٠

قارن بين

القيمة الأولى	القيمة الثانية
(٧ + ٦) + (٦ + ٧)	(٧ + ٧) + (٧ + ٨)

أ القيمة الأولى أكبر
ب القيمة الثانية أكبر
ج القيمتان متساويتان
د المعطيات غير كافية

السؤال ٨١ إذا كان مع محمد ١٩٥ ريال من فئة ٥ ، ١٠ ، ٥٠
وعدد الأوراق من كل فئة متساوي ، فكم عدد الأوراق من كل فئة؟

أ ١
ب ٢
ج ٣
د ٤

السؤال ٨٢ أوجد محيط الشكل :

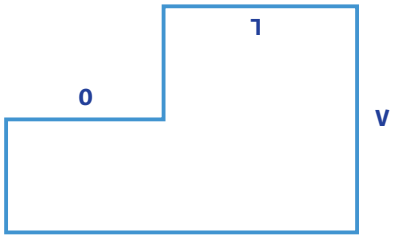

أ ٣٢
ب ٢٩
ج ٣٦
د ٣٨

السؤال ٨٣ إذا كان س > ع ، ص > ع،

قارن بين

القيمة الأولى	القيمة الثانية
س	ص

أ) القيمة الأولى أكبر
ب) القيمة الثانية أكبر
ج) القيمتان متساويتان
د) المعطيات غير كافية

السؤال ٨٤ إذا كانت نسبة الموظفين الغير سعوديين في الشركة (أ) ٣٠ ٪ ،
وعدد الموظفين الشركة (ب) نصف عدد موظفين الشركة (أ) ،
ونسبة الموظفين الغير سعوديين في الشركة (ب) ٤٠ ٪ ،
أوجد نسبة الموظفين الغير سعوديين في الشركتين؟

أ) ٢٠٪
ب) ٢٥٪
ج) ٣٣٪
د) ٣٥٪

السؤال ٨٥ إذا كان ٢٠ل = ١٦ ، ١٠م = ٢٠ ، ٤ن = ١٠ ، فما قيمة ل × م × ن ؟

أ) ٢
ب) ٨
ج) ١٠
د) ٢٠

السؤال ٨٦ خمسة أعداد أصغرهم ٢ والمتوسط عدد صحيح والمنوال ٧ والوسيط ٦،
أوجد المتوسط؟

أ) ٥
ب) ٦
ج) ٧
د) ٨

السؤال ٨٧ قال أب «عمري قبل ١٠ سنوات يساوي اربع أمثال عُمر ابني الآن ،
و عُمر ابني بعد سنتين ١٢ سنة» فما عُمر الأب الآن؟

أ) ٣٠
ب) ٤٠
ج) ٥٠
د) ٦٠

السؤال ٨٨ ما أكبر فرق بين عدد الطلاب في الهوايات المختلفة؟

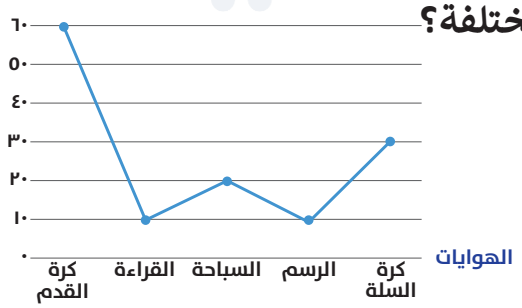

أ) ٣٠
ب) ٤٠
ج) ٥٠
د) ٦٠

السؤال ٨٩

أوجد القيمة التالية : $\frac{٣^{٩} + ٣^{٩}}{٣^{٤}}$

أ) ٨ ب) ١٠ ج) ١٢ د) ١٤

السؤال ٩٠

إذا كان هناك ٣ مجالات و ٤ متقدمين،
وكل إجابة سؤال صحيحة بنقطتين،
وكل خطأ بنقطة واحدة،
فمن أفضل المتقدمين في مجال الحاسب؟

	لغة إنجليزية	حاسب	فرنساوي
الأول	٣	٤	٢
الثاني	٢	٤	٤
الثالث	٥	٤	٣
الرابع	٣	٥	٦

أ) الأول ب) الثاني ج) الثالث د) الرابع

السؤال ٩١

إذا كان أ ب = ٤ ، أ ج = ٣
أوجد د هـ ؟

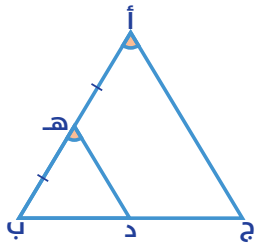

أ) ١,٥ ب) ٢ ج) ٢,٥ د) ٣

السؤال ٩٢

إذا حصل الطالب على ٤٥ درجه من ٥٠، كم تكون درجته من ٦٠؟

أ) ٥٠ ب) ٥٢ ج) ٥٤ د) ٥٥

السؤال ٩٣

أوجد قيمة : $\frac{١}{٣^{٥}} + \frac{١}{٣^{٥}} + \frac{١}{٣^{٥}}$

أ) $\frac{١}{٣^{٣}}$ ب) $\frac{١}{٣^{٤}}$ ج) $\frac{١}{٣^{٦}}$ د) $\frac{١}{٣^{٩}}$

السؤال ٩٤

إذا كان لدينا ثلاثة مربعات، وكان المثلث متطابق الأضلاع ،
أوجد قيمة الزاوية س

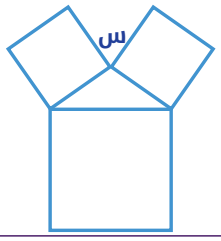

أ) ١٤٠ ب) ١٢٠ ج) ١٥٠ د) ١٨٠

السؤال ٩٥

أوجد قيمة : $\frac{\sqrt{١٤٤}}{٢س} = ٣$

أ) ٢ ب) ٤ ج) ٥ د) ٦

السؤال ٩٦

٦ أعمدة وكل عمود به عدد من الصناديق أقل من الذي قبله بصندوق واحد فإذا كان العمود الرابع به ٥ صناديق ، كم مجموع الصناديق؟

أ) ٢٤ ب) ٣٠ ج) ٣٣ د) ٤٢

السؤال ٩٧

برميل مملوء إلي النصف وزنه ٢٥٠ ، والى ثلاث أرباع وزنه ٣٠٠ ، كم وزن البرميل وهو فارغ ؟

أ) ١٥٠ ب) ٣٠٠ ج) ٢٥٠ د) ٢٠٠

السؤال ٩٨

قارن بين

القيمة الأولى	القيمة الثانية
مساحة مربع طول ضلعه ٣سم	مساحة مثلث متطابق الأضلاع طول ضلعه ٤

أ) القيمة الأولى أكبر ب) القيمة الثانية أكبر ج) القيمتان متساويتان د) المعطيات غير كافية

السؤال ٩٩

تخبز فاطمة كيكة وتحتاج ٥٠ مللتر من عصير البرتقال لكل ١٥٠ مللتر عصير ليمون، وصنعت ب ٦٠٠ مللتر ليمون، فكم تحتاج من عصير البرتقال؟

أ) ٣٠٪ ب) ٢٥٪ ج) ٢٠٪ د) ١٥٪

السؤال ١٠٠

إذا كان الشكل مستطيل ومساحته ٤٨ ،
أوجد إحداثيات النقطة (ب)

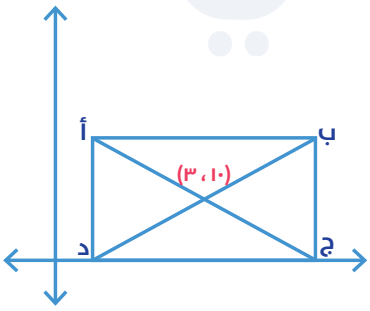

أ) (٤ ، ١٢) ب) (١٤ ، ٤) ج) (١٢ ، ٦) د) (١٤ ، ٦)