السؤال ١ في الشكل المجاور ما قيمة س؟

أ) ٤٥ ب) ٥٤ ج) ٧٢ د) ١٠٨

الحل

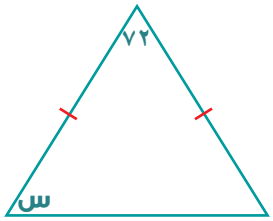

السؤال ٢ في الشكل التالي، مستطيل،
كم سنتمتراً مربعاً مساحة المنطقة المظللة؟

أ) ١٢ ب) ١٦ ج) ٢٠ د) ٢٤

الحل

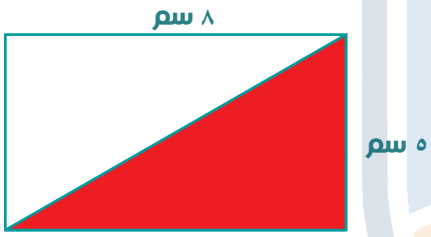

"الرسم ليس على القياس"

السؤال ٣ نسبة حصول طلاب على تقدير ممتاز في بعض المواد لطلاب مدرسة عدد طلابها ٥٠٠ طالب ، كم عدد الطلاب الذين حصلوا على تقدير ممتاز في مادة الرياضيات؟

أ) ٢٣ ب) ٤٣ ج) ١٠٥ د) ١١٥

الحل

السؤال ٤ قارن بين:

القيمة الأولى	القيمة الثانية
٪٢٠ من ٢٠٠ ريال	٪١٠ من ٣٠٠ ريال

أ) القيمة الأولى أكبر ب) القيمة الثانية أكبر ج) القيمتان متساويتان د) المعطيات غير كافية

الحل

بكر أكاديمي

السؤال ٥

قارن بين:

القيمة الأولى	القيمة الثانية
$١,٥ \times \frac{١}{٢}$	٠,٧٥

أ القيمة الأولى أكبر
ب القيمة الثانية أكبر
ج القيمتان متساويتان
د المعطيات غير كافية

الحل

السؤال ٦

إنتاج السيارات بالملايين في بعض الدول خلال سنة واحدة،
ما الدولة التي تنتج من السيارات سبعة أمثال إنتاج أستراليا؟

أ فرنسا
ب أمريكا
ج ألمانيا
د إطاليا

الحل

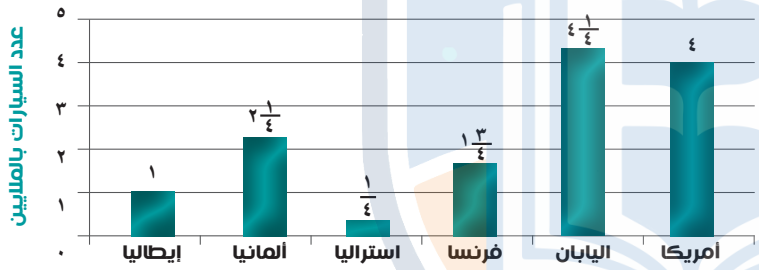

السؤال ٧

المبيعات السنوية لمحل ألعاب بريالات ،
كم ريالًا مجموع المبيعات في الربعين الثالث و الرابع؟

أ ٣٥٠٠
ب ٤٠٠٠
ج ٧٠٠٠
د ٧٥٠٠

الحل

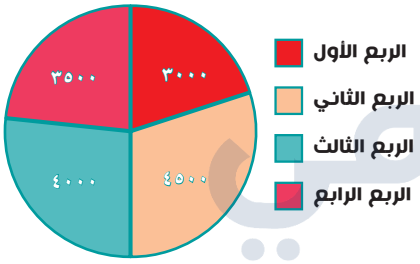

السؤال ٨

المبيعات السنوية لمحل ألعاب بريالات ،
ثاني أكبر مبيعات للألعاب كان في الربع

أ الأول
ب الثاني
ج الثالث
د الرابع

الحل

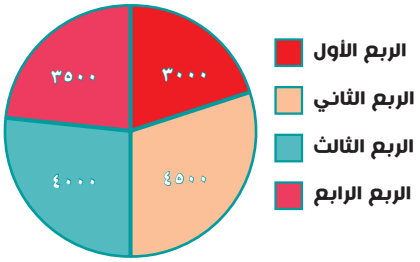

السؤال ٩ إذا كان س × ص = ١٥ ، ص × ع = ٥ ، حيث س ، ص ، ع أعداد صحيحة موجبة
س > ص فإن $\frac{س}{ع}$ تساوي

أ ١ ب ٣ ج ٥ د ٧

الحل

السؤال ١٠ إذا كانت س ص < صفر ،

قارن بين:

القيمة الأولى	القيمة الثانية
س	ص

أ القيمة الأولى أكبر ب القيمة الثانية أكبر ج القيمتان متساويتان د المعطيات غير كافية

الحل

السؤال ١١ نسبة التخرج الإجمالية لطلبة الدكتوراة في المملكة العربية السعودية بين الجنسين، أعلى نسبة تخرج لطلبة الدكتوراة بالنسبة للذكور كانت عام :

أ ١٤٢٩ ب ١٤٣٠ ج ١٤٣١ د ١٤٣٢

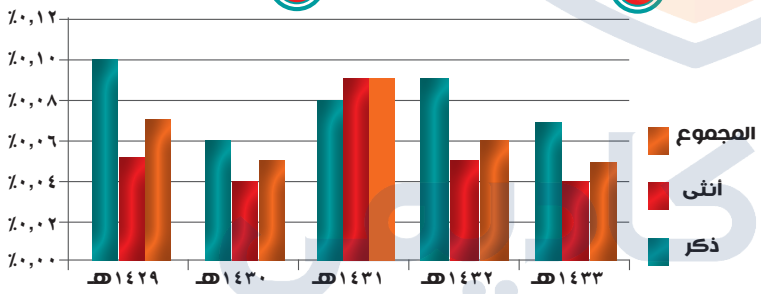

الحل

السؤال ١٢ في الشكل التالي، س + ص = ٧ ، فقارن بين:

القيمة الأولى	القيمة الثانية
أ ب	١٤

أ القيمة الأولى أكبر ب القيمة الثانية أكبر ج القيمتان متساويتان د المعطيات غير كافية

الحل

السؤال ١٣ قارن بين:

القيمة الأولى	القيمة الثانية
$\frac{٢٥^{-١}}{٥^{-٢}}$	٢٥

أ القيمة الأولى أكبر
ب القيمة الثانية أكبر
ج القيمتان متساويتان
د المعطيات غير كافية

الحل

السؤال ١٤ أوجد الحد التالي ٢ ، ٣ ، ٥ ، ٨ ، ١٢

أ ١٥
ب ١٦
ج ١٧
د ١٩

الحل

السؤال ١٥ يوسف يملك مبلغ أكبر من منصور ب ٣٠٠ ريال، ومنصور يمتلك مبلغ أقل من سعود بـ ٥٠٠ ريال، وسعود معه ٢١٠٠ ريال، ما المبلغ الذي يمتلكه يوسف؟

أ ١٢٠٠
ب ١٤٠٠
ج ١٨٠٠
د ١٩٠٠

الحل

السؤال ١٦ ١٤٠ مقسمه على شخصين بنسبة $\frac{٣}{٤}$ ، فقارن بين:

القيمة الأولى	القيمة الثانية
نسبة الشخص الأول	٨٥

أ القيمة الأولى أكبر
ب القيمة الثانية أكبر
ج القيمتان متساويتان
د المعطيات غير كافية

الحل

السؤال ١٧ ثلاثة أعداد صحيحة متتالية مجموعهم = حاصل ضرب العدد الثاني في الثالث، فإن أحد هذه الأعداد هو؟

أ ٣ ب ٤ ج ٥ د ٦

الحل

السؤال ١٨ أوجد قيمة س بالسنتيمترًا في الشكل المجاور :

أ ٦ ب ٦,٢٥ ج ٧ د ٧,٥

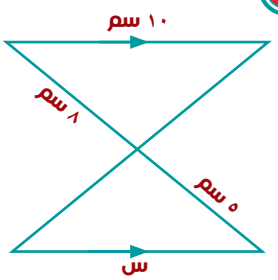

الحل

السؤال ١٩ أوجد قيمة ص بالسنتيمترًا في الشكل المجاور

أ ١ ب ١,٤ ج ١,٥ د ٢

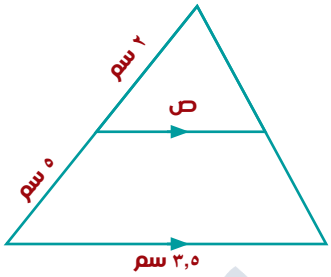

الحل

السؤال ٢٠ عدد يقبل القسمة على ٩ بدون باقي ولا يقبل القسمة على ٤ ، فما هو هذا العدد؟

أ ١٠٨ ب ١١٢ ج ١٢٩ د ١٣٥

الحل

السؤال ٢١ ساعة حائط تتقدم ٩ دقائق كل ساعة، إذا كانت الساعة الآن ١٢ صباحًا، فقارن بين:

القيمة الأولى	القيمة الثانية
الوقت بالساعة بعد مرور ٦ ساعات	٧ صباحًا

أ) القيمة الأولى أكبر
ب) القيمة الثانية أكبر
ج) القيمتان متساويتان
د) المعطيات غير كافية

الحل

السؤال ٢٢ إذا كانت س < صفر < ص، فقارن بين:

القيمة الأولى	القيمة الثانية
س + ص	س - ص

أ) القيمة الأولى أكبر
ب) القيمة الثانية أكبر
ج) القيمتان متساويتان
د) المعطيات غير كافية

الحل

السؤال ٢٣ قارن بين:

القيمة الأولى	القيمة الثانية
٥ + ٥ $\sqrt{٥}$	١٥

أ) القيمة الأولى أكبر
ب) القيمة الثانية أكبر
ج) القيمتان متساويتان
د) المعطيات غير كافية

الحل

السؤال ٢٤ س هي قياس زاوية ساعة من ٢ إلى ٨ ، فكم قيمة س؟

أ) ١١٠
ب) ١٢٠
ج) ١٣٥
د) ١٨٠

الحل

السؤال ٢٥ قارن بين:

القيمة الأولى	القيمة الثانية
$٢\sqrt{٣}$	$٣\sqrt{٢}$

أ) القيمة الأولى أكبر
ب) القيمة الثانية أكبر
ج) القيمتان متساويتان
د) المعطيات غير كافية

الحل

السؤال ٢٦ إذا كانت ص = ٣ ، أوجد قيمة س بالآتي : ١٥ س = ١٢ س + ص

أ) ١
ب) ٢
ج) ٣
د) ٤

الحل

السؤال ٢٧ في الشكل التالي، إذا كانت أب = ٨، فكم نصف قطر الدائرة؟

أ) $٨\sqrt{٢}$
ب) $٤\sqrt{٢}$
ج) $٢\sqrt{٢}$
د) ٢

الحل

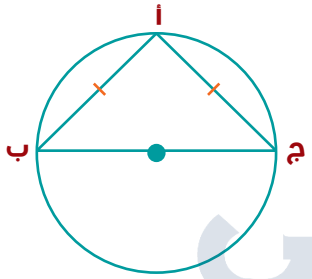

السؤال ٢٨ ٢٥٠ جرام + عدد من الجرامات = كيلوجرام ، فكم هذا العدد؟

أ) ٥٠٠ جرام
ب) ٦٠٠ جرام
ج) ٧٥٠ جرام
د) ٨٠٠ جرام

الحل

السؤال ٢٩

قارن بين:

القيمة الأولى	القيمة الثانية
س	٣٠

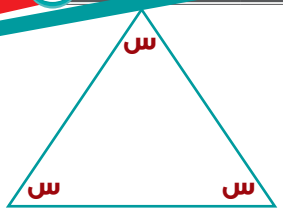

أ القيمة الأولى أكبر
ب القيمة الثانية أكبر
ج القيمتان متساويتان
د المعطيات غير كافية

الحل

السؤال ٣٠

إذا كانت س = صفر ،

فقارن بين:

القيمة الأولى	القيمة الثانية
٣٢	$(س + ٢)^{٥}$

أ القيمة الأولى أكبر
ب القيمة الثانية أكبر
ج القيمتان متساويتان
د المعطيات غير كافية

الحل

السؤال ٣١

قارن بين:

القيمة الأولى	القيمة الثانية
$\frac{١٥}{١٠٠}$	$\frac{١,٥}{٥}$

أ القيمة الأولى أكبر
ب القيمة الثانية أكبر
ج القيمتان متساويتان
د المعطيات غير كافية

الحل

بكر أكاديمي

السؤال ٣٢ إذا كانت ٦س + ٣ق = ٦٣ ، و ٤س = ٤٠ ، فما قيمة ق؟

أ ١ ب ٢ ج ٣ د ٤

الحل

السؤال ٣٣ إذا كان وزن جوال ١٧٦ جرام ،

فقارن بين:

القيمة الأولى	القيمة الثانية
١,٨ كيلوجرام	وزن ١٠ جوالات

أ القيمة الأولى أكبر ب القيمة الثانية أكبر ج القيمتان متساويتان د المعطيات غير كافية

الحل

السؤال ٣٤ في الشكل المجاور ، أوجد قيمة س

أ ١٠ ب ١٥ ج ٢٠ د ٣٠

الحل

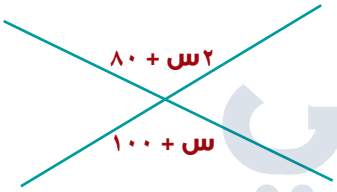

السؤال ٣٥ في الشكل المجاور ، كم أرتفاع الشجرة؟

أ ٤٥ ب ٦٠ ج ١٠٠ د ١٢٠

الحل



السؤال ٣٦ بعد ثلاث ساعات يكون الوقت منتصف الليل، ما الوقت الآن؟

أ ٩ مساءً
ب ٢ صباحًا
ج ٨ مساءً
د ١ صباحًا

الحل

السؤال ٣٧ س ، ص عددين صحيحين متتاليين، س ص < ٢ ،
فقارن بين:

القيمة الأولى	القيمة الثانية
س	ص

أ القيمة الأولى أكبر
ب القيمة الثانية أكبر
ج القيمتان متساويتان
د المعطيات غير كافية

الحل

السؤال ٣٨ قارن بين:

القيمة الأولى	القيمة الثانية
$\sqrt[5]{٠,٠٤}$	١

أ القيمة الأولى أكبر
ب القيمة الثانية أكبر
ج القيمتان متساويتان
د المعطيات غير كافية

الحل

السؤال ٣٩ إذا كانت ع = د ، أوجد قيمة($\frac{٦د}{د}$ × س) ÷ ($\frac{٣د}{د}$ × س)

أ ٢ ب ٣ ج ٤ د ٦

الحل

السؤال ٤٠ اشترت هند ٧ فساتين وحقيبة وكانت السعر ٥٠٠ ريال
و اشترت منى ٧ فساتين من نفس النوع وحذاء وكان السعر ٧٠٠ ريال
فقارن بين:

القيمة الأولى	القيمة الثانية
سعر الحقيبة	سعر الحذاء

أ القيمة الأولى أكبر ب القيمة الثانية أكبر ج القيمتان متساويتان د المعطيات غير كافية

الحل

السؤال ٤١ إذا كان ٦ أطباء بيطريين يتابعون ٣٠٠٠ بقرة، فإذا غاب أحد الأطباء ،
فكم بقرة يتابعها الطبيب الواحد؟

أ ٦٠٠ ب ٥٠٠ ج ٣٠٠ د ٢٠٠

الحل

السؤال ٤٢ مزرعة بها بقر ودجاج وعدد الدجاج مثلي عدد البقر، وعدد أرجل البقر = ٥٢ ،
فكم عدد الدجاج؟

أ ١٣ ب ٢٦ ج ٥٢ د ٦٠

الحل

بكر أكاديمي

السؤال ٤٣ مدرسة أهلية بها عشر فصول كل فصل يستوعب ٣٦ شخص، و اشترت المدرسة طاولات على شكل سداسي بحيث يجلس كل طالب على طرف من الطاولة ، فكم عدد الطاولات؟

أ ٣٦ ب ٥٠ ج ٥٤ د ٦٠

الحل

السؤال ٤٤ أوجد قيمة $٢ \div ٢^{٢} - ٢^{-٣} \times ٢$

أ $\frac{١}{٤}$ ب $-\frac{١}{٤}$ ج $\frac{١}{٢}$ د $-\frac{١}{٢}$

الحل

السؤال ٤٥ في الشكل المجاور ، أوجد نسبة الأصفر إلى الشكل

أ ١٢,٥٪ ب ٣٧,٥٪ ج ٤٠٪ د ٥٢٪

الحل

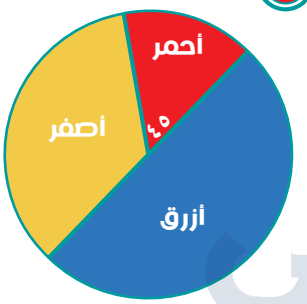

السؤال ٤٦ في الشكل المجاور ، أوجد وسيط درجات الطلاب

أ ٠ ب ١ ج ٢ د ٤

الحل

الدرجات	عدد الطلاب
٠	٣
١	٦
٢	٧
٣	٤

السؤال ٤٧ إذا كانت س < ٠ ، أوجد قيمة |- س^{٣}|

أ) -|- س^{٣}| ب) |س^{٣}| ج) س^{٢} × س د) س^{٣}

الحل

السؤال ٤٨ قارن بين:

القيمة الأولى	القيمة الثانية
٣	$\sqrt[٣]{٠,٠٢٧}$

أ) القيمة الأولى أكبر ب) القيمة الثانية أكبر ج) القيمتان متساويتان د) المعطيات غير كافية

الحل

السؤال ٤٩ إذا كانت ١ + ٢ + ٣ + ٤ + ٥ + س = ٣١ + ٣٢ + ٣٣ + ٣٤ + ٣٥
أوجد قيمة س

أ) ١٢٠ ب) ١٥٠ ج) ١٦٠ د) ١٨٠

الحل

السؤال ٥٠ ما هو العدد الذي إذا أضفناه إلى كل من بسط ومقام العدد $\frac{٧}{١١}$ يصبح الناتج $\frac{١}{٢}$؟

أ) ٣ ب) -٣ ج) ٢ د) -٢

الحل

بكر أكاديمي

السؤال ٥١ إذا كان الضلع ب ج = نصف الضلع ج د ، و الضلع د هـ = نصف الضلع ج د، فقارن بين:

القيمة الأولى	القيمة الثانية
مساحة المثلث أ ج د	مجموع مساحة المثلث أ ب ج + المثلث أ د هـ

أ القيمة الأولى أكبر
ب القيمة الثانية أكبر
ج القيمتان متساويتان
د المعطيات غير كافية

الحل

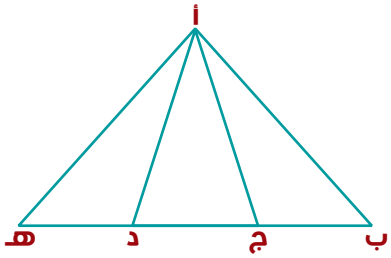

السؤال ٥٢ عائلة مجموع أعمار أفرادها حاليًا هو ٧٨ عامًا ، وبعد ٣ سنوات سيصبح مجموع أعمارهم ٩٠ عامًا ، فكم عدد أفراد العائلة؟

أ ٢
ب ٣
ج ٤
د ٥

الحل

السؤال ٥٣ في الشكل المجاور ، أوجد قيمة س :

أ ٣٠
ب ٣٢
ج ٣٤
د ٣٦

الحل

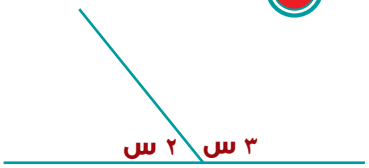

السؤال ٥٤ إذا كانت $\frac{٢ + ل}{٣ - ل}$ = صفر ، فما قيمة (ل - ١)

أ ٣
ب -٣
ج ٢
د -٢

الحل

السؤال ٥٥ إذا كانت أرباح متجر ٨٠٠ ريال وكل عام تزداد الأرباح ٢٠٠ ريال ، فبعد كم عام يصبح ربح المتجر ١٦٠٠ ريال؟

أ عام
ب عامين
ج ٣ أعوام
د ٤ أعوام

الحل

السؤال ٥٦ في الشكل المجاور، إذا كانت النقطة ص منتصف الدائرة، فكم أحداثيات النقطة ل؟

أ (٦ ، ٥)
ب (٤ ، ٦)
ج (-٣ ، -٥)
د (-٢ ، -٥)

الحل

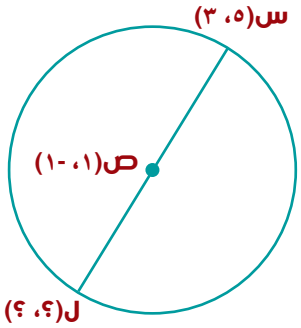

السؤال ٥٧ إذا كانت $أ^{٢} - ب^{٢} = ٤٨$ ، أ + ب = ٢٤ ، ما قيمة أ - ب؟

أ ٢
ب ٤
ج ٦
د ١٢

الحل

السؤال ٥٨ قارن بين:

القيمة الأولى	القيمة الثانية
١	٠,٩ × ٠,٩

أ القيمة الأولى أكبر
ب القيمة الثانية أكبر
ج القيمتان متساويتان
د المعطيات غير كافية

الحل

بكر أكاديمي

السؤال ٥٩ أوجد قيمة س في الشكل المجاور بالسنتيمتر :

أ ٣ ب ٤ ج ٦ د ٧

الحل

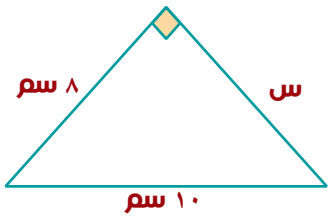

السؤال ٦٠ بدأ احمد بقراءة كتاب يوم الأحد ب ٥ صفحات و عدد صفحات الكتاب ١٠٥ واصبح يقرأ كل يوم مثلي اليوم السابق، متى ينتهي من قراءة الكتاب ؟

أ الأحد ب الاثنين ج الأربعاء د الخميس

الحل

السؤال ٦١ أوجد قيمة $٢^{١٠٠} - ٢^{٩٩}$

أ ٢ ب ٩٨ ج ١٩٩ د ٢١٦

الحل

السؤال ٦٢ كم ثلث في $\frac{٨}{١٢}$

أ ٢ ب ٣ ج ٤ د ٥

الحل

بكر أكاديمي

السؤال ٦٣ أوجد قيمة : $\sqrt{\frac{١}{٢} \times \frac{٢}{٣} \times \frac{٣}{٤} \times \ldots\ldots \times \frac{٨}{٩}}$

أ) $\frac{١}{٣}$ ب) $\frac{١}{٦}$ ج) $\frac{١}{٩}$ د) $\frac{١}{١٢}$

الحل

السؤال ٦٤ قارن بين:

القيمة الأولى	القيمة الثانية
٤٤٣	٢٢٧

أ) القيمة الأولى أكبر ب) القيمة الثانية أكبر ج) القيمتان متساويتان د) المعطيات غير كافية

الحل

السؤال ٦٥ مثلث زواياه س، ص، ع ، إذا كانت س + ص = ع، فما شكل المثلث؟

أ) قائم ب) حاد ج) منفرج د) متساوي الأضلاع

الحل

السؤال ٦٦ في الشكل المجاور ، أوجد قيمة س

أ) ٣٠ ب) ٤٠ ج) ٥٠ د) ٧٠

الحل

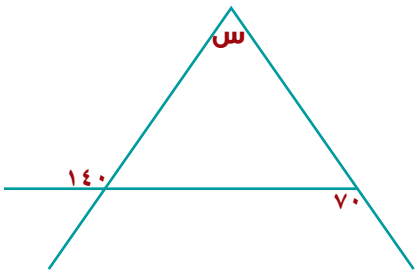

السؤال ٦٧ إذا كان الوزن بالفضاء = $\frac{١}{٦}$ الوزن على الأرض فإذا كان وزن شخص ٩٠ كيلوجرام على الأرض، فكم وزنه بالفضاء بالكيلو جرامات؟

أ ١٥ ب ٢٠ ج ٣٠ د ٤٠

الحل

السؤال ٦٨ في الشكل المجاور، أوجد طول الضلع أ د بالسنتمتر

أ ٣ ب ٤ ج ٥ د ٦

الحل

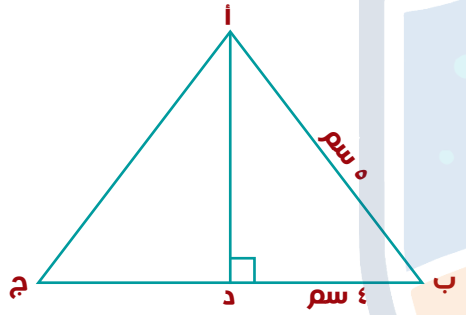

السؤال ٦٩ إذا كان مجموع ما مع أحمد و عبدالعزيز = ٢٠ ، أحمد معه ٣ أمثال ما مع عبدالعزيز، فكم مع عبدالعزيز؟

أ ٢٠ ب ١٥ ج ١٠ د ٥

الحل

السؤال ٧٠ ما هو العدد الذي بين العددين $\frac{١١}{٥}$ و $\frac{١٥}{٤}$

أ ١ ب ٣ ج ٢ د ٤

الحل

السؤال ٧١ كم عدد الأعداد الصحيحة الموجبة التي ناتج مربعها أقل من ٥٠ ؟

أ ٥ ب ٦ ج ٧ د ٨

الحل

السؤال ٧٢ سلك طوله ١٢ سم تم عمله على شكل مثلث متطابق الأضلاع، فكم طول الضلع الواحد بالسنتمتر؟

أ ٣ ب ٤ ج ٥ د ٦

الحل

السؤال ٧٣ سلك طوله ٢٠ سم، إذا أردنا أن نصنع منه مربع، فكم طول ضلع المربع بالسنتمتر؟

أ ٤ ب ٥ ج ٨ د ١٠

الحل

السؤال ٧٤ في حفلة تم دعوة ٥٠٠ شخص وحضر الحفلة ٤٠٠ شخص ما نسبة الحاضرين؟

أ ٣٠٪ ب ٦٠٪ ج ٧٠٪ د ٨٠٪

الحل

بكر أكاديمي

السؤال ٧٥ أي القيم التالية تحقق الناتج ١١؟

أ) $(\frac{٥}{٥}) + ٤ + (٣ \times ٢)$

ب) $(\frac{٥}{٥}) + ٣ + (٣ \times ٢)$

ج) $(\frac{٣}{٣}) + ٢ + (٣ \times ٣)$

د) $(\frac{٥}{٥}) + ٥ + (٢ \times ٢)$

الحل

السؤال ٧٦ الشكل المجاور يمثل عدد من الطلاب المبتعثين في عدة دول، ما فرق عدد الطلاب المبتعثين بين أمريكا و استراليا؟

أ) ٧٥٠

ب) ١٥٥٠

ج) ١٦٠٠

د) ١٦٥٠

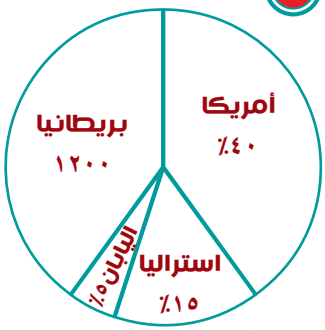

الحل

السؤال ٧٧ إذا كانت عدد قوائم الماعز ٤ و الطير ٢، فكم عدد قوائم ٤ من الماعز و ٦ طيور؟

أ) ٨

ب) ١٦

ج) ٢٤

د) ٢٨

الحل

السؤال ٧٨ خالد اشترى ٧ تذاكر ب ١١ ريال لكل تذكرة و اشترى ٧ تذاكر ب ٩ ريال لكل تذكرة و ٧ تذاكر ب ٨ ريال لكل تذكرة ، فكم مجموع الذي أنفقه على التذاكر؟

أ) ١٨٠

ب) ١٩٠

ج) ١٩٦

د) ١٩٨

الحل

السؤال ٧٩ أوجد الحد التالي : ٢ , ٨ , ١٨ , ٣٢

أ ٣٨ ب ٤٠ ج ٤٨ د ٥٠

الحل

السؤال ٨٠ إذا كانت $\frac{١}{٢س + ١} = \frac{١}{٢ + س}$ ، أوجد قيمة س

أ صفر ب ١ ج ٢ د ٣

الحل

السؤال ٨١ عند جمع ٣ أعداد فردية متتالية فإن الناتج دائمًا يقبل القسمة على؟

أ ٣ ب ٧ ج ٢ د ٥

الحل

السؤال ٨٢ إذا كانت س ل عددان صحيحان موجبان، و ٤ل = ٥س،
فقارن بين :

القيمة الأولى	القيمة الثانية
ل	س

أ القيمة الأولى أكبر ب القيمة الثانية أكبر ج القيمتان متساويتان د المعطيات غير كافية

الحل

السؤال ٨٣ إذا كانت مساحة المستطيل المجاور ٤٠، فكم مساحة الجزء المظلل؟

أ ١٠ ب ١٣ ج ٢٠ د ٢٢

الحل

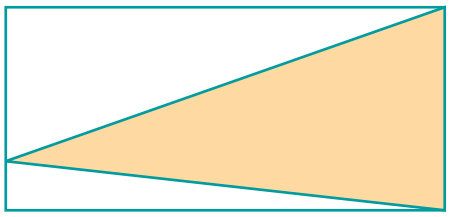

السؤال ٨٤ إذا كانت س = ٣ ،

قارن بين:

القيمة الأولى	القيمة الثانية
$\frac{٣}{٢ - س}$	$\frac{٦}{١ - س}$

أ القيمة الأولى أكبر ب القيمة الثانية أكبر ج القيمتان متساويتان د المعطيات غير كافية

الحل

السؤال ٨٥ إذا كان المبلغ الذي مع أحمد ضعف المبلغ الذي مع خالد ومجموع ما معهما ١١١ ريال ، فكم المبلغ الذي مع خالد؟

أ ٣٥ ب ٣٧ ج ٣٦ د ٣٤

الحل

السؤال ٨٦ حديقة تذاكر الكبار بها ب ٥ ريالات و الصغار بريالين، إذا كان مجموع المبالغ المدفوعة ٨٧، فكم عدد الكبار؟

أ ٢١ ب ٩ ج ٨ د ٢٣

الحل

بكر أكاديمي

السؤال ٨٧ أحمد يمشي ٥ كلم يوميا من الأحد إلى الخميس، فما اليوم الذي يقطع فيه ٥٧ كلم ؟

أ الأحد
ب الاثنين
ج الثلاثاء
د الأربعاء

الحل

السؤال ٨٨ إذا كانت س = ٢ص ، ص = ٢ع ، س + ص + ع = ٤٩، ما قيمة ع؟

أ ٧
ب ١٤
ج ٢٤
د ٢٩

الحل

السؤال ٨٩ إذا كانت مساحة المستطيل ٤٠ سم ، و القيم بداخل المستطيل تمثل مساحات الأجزاء ،أوجد قيمة س بالسنتمتر المربع

أ ٢
ب ٤
ج ٦
د ٨

الحل

السؤال ٩٠ إذا كانت ٥س - ١ = ٣س - ١ ، أوجد قيمة س

أ ١
ب ٢
ج ٢
د ٤

الحل

السؤال ٩١ عامل ينهي معاملة في ٢٠ دقيقة، في كم دقيقة ينهي ٦ عمال ٣ معاملات؟

أ ٨ ب ١٠ ج ١٢ د ١٤

الحل

السؤال ٩٢ قارن بين:

القيمة الأولى	القيمة الثانية
س + ص	١١٩

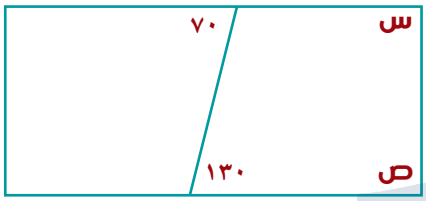

أ القيمة الأولى أكبر ب القيمة الثانية أكبر ج القيمتان متساويتان د المعطيات غير كافية

الحل

السؤال ٩٣ إذا كانت أ و ب عدد صحيحان ، قارن بين:

القيمة الأولى	القيمة الثانية
|أ|	|ب|

أ القيمة الأولى أكبر ب القيمة الثانية أكبر ج القيمتان متساويتان د المعطيات غير كافية

الحل

السؤال ٩٤ معرض سيارات فيه ٦٤ سيارة ، وعدد السيارات البيضاء ٤٠ وعدد السيارات السوداء نصف السيارات المتبقية، فكم عدد السيارات السوداء؟

أ ١٠ ب ١٢ ج ١٤ د ١٦

الحل

بكر أكاديمي

السؤال ٩٥ باع تاجر سلعة بـ ٢٤٠٠ ريال بربح ٢٠٪ ، كم يكون سعرها إذا باعها بربح ٥٪ ؟

أ ٢٠٠٠ ب ٢١٠٠ ج ٢٢٠٠ د ٢٣٠٠

الحل

السؤال ٩٦ ثلاثة عمال عملوا لمدة ٦ ساعات مجموع ما تقاضوه خلالها ١١٠٠ ريال ، حيث عمل الأول كامل المدة و الثاني نصف المدة و الثالث ثلث المدة، فكم نصيب الثاني بريالات؟

أ ٢٠٠ ب ٣٠٠ ج ٥٠٠ د ٦٠٠

الحل

السؤال ٩٧ قارن بين:

القيمة الأولى	القيمة الثانية
$٢ + (٠)^{١}$	$٢ + ١^{٠}$

أ القيمة الأولى أكبر ب القيمة الثانية أكبر ج القيمتان متساويتان د المعطيات غير كافية

الحل

السؤال ٩٨ يبلغ سعر سياره ١٠٠ ألف ريال نقداً ، إذا بيعت بالتقسيط على سنتين على أن يدفع المشتري قسطاً شهرياً قدره ٥٠٠٠ ريال ، فما نسبة الربح الذي تحصل عليه الشركة من البيع بالتقسيط؟

أ ١٠٪ ب ١٥٪ ج ٢٠٪ د ٢٥٪

الحل

السؤال ٩٩ دائرتان متماستان، الدائرة الأولى مركزها م، ونصف قطرها ١م، والدائرة الثانية مركزها ن، ونصف قطره ٣م ، كم مترًا طول $\overline{\text{م هـ}}$

أ ٤ ب ٥ ج ٦ د ٧

الحل

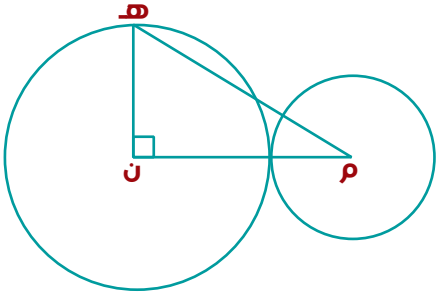

"الرسم ليس على القياس"

السؤال ١٠٠ مستطيل بداخله مربعات صغيرة متطابقة ، مساحة كل مربع ١ سم^{٢}، كم سنتمتراً مربعاً مساحة المنطقة المظللة؟

أ ٦ ب ٧ ج ٨ د ٩

الحل

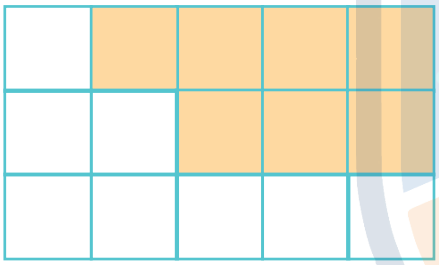

السؤال ١٠١ يحتاج نوع من عصير الفواكه المشكل إلى ٤ لترات من عصير الجوافة لكل ١٠ لترات من عصير الليمون، إذا أستعمل رائد ٦٥ لتراً من عصير الليمون، فكم لتراً من عصير الجوافة يتم إضافته؟

أ ٢٠ ب ٢٦ ج ٣٠ د ٣٦

الحل

السؤال ١٠٢ مستطيل طوله مثلا عرضه إذا كان طوله ٨سم، فكم سنتمترا عرضه؟

أ ٤ ب ٨ ج ١٢ د ١٦

الحل

السؤال ١٠٣ أقل من نصف العدد ١٠ بمقدار ١ يساوي

أ ٧ ب ٦ ج ٥ د ٤

الحل

السؤال ١٠٤ إذا كان مصنع أجبان يستخرج ٢كجم من الجبن من كل ١٥ لتراً من الحليب ، فكم لتراً يحتاج إذا أراد أن يستخرج ١٢ كيلوجراماً من الجبن؟

أ ٢٤ ب ٣٦ ج ٦٠ د ٩٠

الحل

السؤال ١٠٥ كم نحتاج أن نضيف للعدد ١٣ حتى يقبل القسمة على ٥؟

أ ٢ ب ٣ ج ٤ د ٥

الحل

السؤال ١٠٦ اشترك شخصان بالتساوي في شراء ثلاجة فإذا دفع الأول ٨٠٠ ريال ، فكم ريال دفعه الثاني؟

أ ٤٠٠ ب ٨٠٠ ج ٦٠٠ د ١٦٠٠

الحل

السؤال ١٠٧ كم بلغت نسبة الانخفاض في عدد الموظفين في قطاع الصناعة في عام ٢٠٠٥ م عن عام ٢٠٠٣ م؟

أ ٥٪ ب ١٠٪ ج ١٥٪ د ١٩٪

الحل

عدد الموظفين الجدد في قطاعات مختلفة في إحدى المدن

	٢٠٠٣م	٢٠٠٤م	٢٠٠٥م	٢٠٠٦م
قطاع التعليم	٥٠٠٠	٤٥٠٠	٣٦٠٠	٣٢٤٠
قطاع الصناعة	١٠٠٠	٩٠٠	٩٠٠	٨١٠
قطاع المصارف	٣٠٠٠	٣٦٠٠	٤٣٠٠	٦٠٠٠
قطاع الخدمات	٤٠٠٠	٦٠٠٠	٧٣٠٠	٨٠٠٠
القطاع التجاري	٢٠٠٠	٢٤٠٠	٢٨٤٠	٣٠٠٠

السؤال ١٠٨ في الشكل : مربع مساحته ٤٠ م^{٢}، كم متراً مربعاً مساحة الجزء المظلل؟

أ ١٠ ب ٨ ج ٦ د ٤

الحل

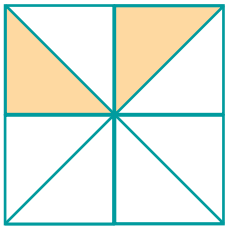

السؤال ١٠٩ عدد الخريجات يتجاوز عدد الخريجين طيلة فترة المقامة، ماعدا عام :

أ ١٤٣٠ ب ١٤٣١ ج ١٤٣٢ د ١٤٣٣

الحل

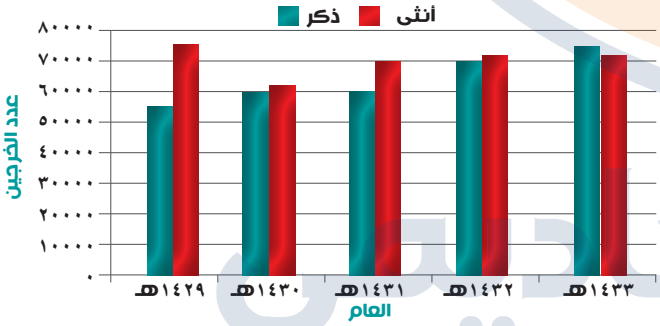

السؤال ١١٠ الشهر الذي تساوى فيه عدد المراجعين الذين لديهم تأمين طبي والذين ليس لديهم تأمين طبي :

أ محرم ب صفر ج ربيع الأول د ربيع الثاني

الحل

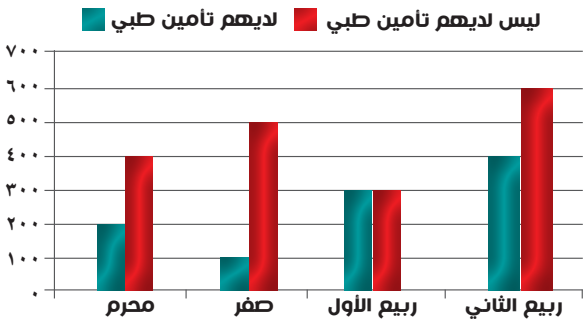

السؤال ١١١ في الشكل التالي، $\overleftrightarrow{\text{ل م}}$ محور تناظر للمثلث، فما قيمة س؟

أ) ٤ ب) ٥ ج) ٦ د) ٧

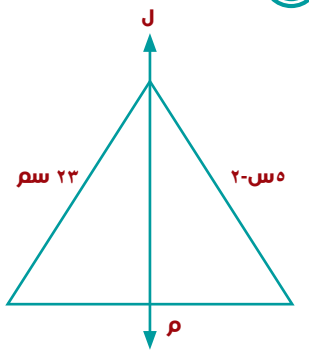

الحل

السؤال ١١٢ ما قيمة س + ص

أ) ٨٠ ب) ١٠٠ ج) ١٥٠ د) ٢٠٠

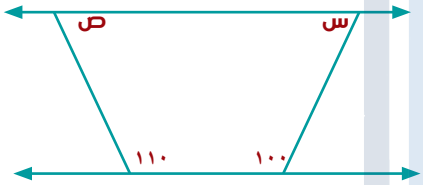

الحل

السؤال ١١٣ في الشكل التالي، إذا كانت $\overline{\text{د هـ}}$ عمود إنارة، $\overline{\text{أ ب}}$ حائط، وظل أ يقع على ج ، فكم متراً طول عمود الإنارة؟

أ) ٤ ب) ٥ ج) ٦ د) ٧

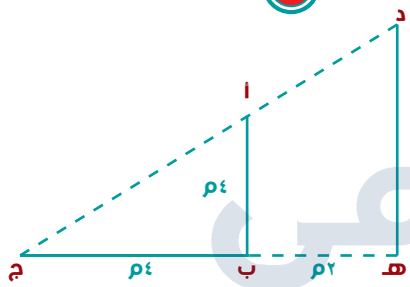

الحل

السؤال ١١٤ قارن بين:

القيمة الأولى	القيمة الثانية
العدد الذي يقل بمقدار ٢ عن - ٨	العدد الذي يزيد بمقدار ٦ عن - ٣

أ) القيمة الأولى أكبر ب) القيمة الثانية أكبر ج) القيمتان متساويتان د) المعطيات غير كافية

الحل

السؤال ١١٥ تستهلك مكينة ٢٠ لتراً من الديزل لصنع ٢٤٠ طناً من الحديد ، كم لتراً من الديزل تستهلك لصنع ٣٠٠ طن من الحديد؟

أ ٢٠ ب ٢٥ ج ٣٠ د ٣٥

الحل

السؤال ١١٦ معاذ ورامي وفارس أعمارهم أعداد صحيحة مختلفة، إذا كان حاصل ضرب أعمارهم يساوي ٢٧ ، فقارن بين:

القيمة الأولى	القيمة الثانية
حاصل ضرب أعمارهم	مجموع أعمارهم

أ القيمة الأولى أكبر ب القيمة الثانية أكبر ج القيمتان متساويتان د المعطيات غير كافية

الحل

السؤال ١١٧ سلعة تزيد قيمتها كل سنة ١٠ ٪ عن السنة السابقة بعد ٣سنوات ، كم نسبة الزيادة عن سعرها الأصلي؟

أ ٣٠ ٪ ب ٣١,٣ ٪ ج ٣٣,١ ٪ د ٣٤ ٪

الحل

السؤال ١١٨ مسبح فارغ سعته ٣٢ م^{٣}، إذا فتحنا عليه صنبورين، أحدهما يضخ ٢,٨ م^{٣} في الساعة، و الآخر يضخ ٥,٢ م^{٣} في الساعة، كم ساعة تحتاج لملئه؟

أ ٤ ب ٥ ج ٦ د ٧

الحل

السؤال ١١٩ ما العدد التالي في النمط : ٢ ، ٣ ، ٥ ، ٨ ، ١٢ ، ..

أ ١٧ ب ١٦ ج ١٥ د ١٤

الحل

السؤال ١٢٠ بعد ثلاث ساعات يكون الوقت قبل منتصف الليل بساعة، ما الوقت الآن؟

أ ٩ مساءً ب ٢ صباحًا ج ٨ مساءً د ١ صباحًا

الحل

السؤال ١٢١ تنجز شركة مقاولات بناء ٢٠٠ وحدة سكنية في السنة الواحدة، فإذا حصلت علَى عقد لبنَاء ١٠٠٠ وحدة سكنية ، فكم سنة يلزم الشركة لإنجاز البناء؟

أ ٣,٥ ب ٤ ج ٤,٥ د ٥

الحل

السؤال ١٢٢ افتتح مروان محلاً لبيع العصير يوم الجمعة، وباع يوم الافتتاح ١٠٠ علبة ، وبعد ذلك يبيع ٥٠ علبة كل يوم، في أي يوم ستبلغ مبيعاته ٥٠٠ علبة؟

أ السبت ب الأحد ج الاثنين د الثلاثاء

الحل

بكر أكاديمي

السؤال ١٢٣ تضع منى ٤ تفاحات و ٣ برتقالات و ٦ موزات في كل طبق فإذا كان عندها ٢٤ تفاحة و ١٨ برتقالة و ٣٦ موزة ، فكم طبقاً تحتاج؟

أ ٢٤ ب ١٨ ج ١٠ د ٦

الحل

السؤال ١٢٤ عدد صحيح يقع بين ١ و ١٠٠ إذا قسم على ٣ كان الباقي واحد وإذا قسم على ٥ كان الباقي واحد ويقبل القسمة على ٧ ما هذا العدد؟

أ ٥٦ ب ٦١ ج ٧٦ د ٩١

الحل

السؤال ١٢٥ يحتوي صندوق على ٩ كرات مرقمة من (١ - ٩) ، إذا سحبت كرة عشوائيا من هذا الصندوق ، ما أحتمال أن يكون رقم الكرة فردياً؟

أ $\frac{١}{٣}$ ب $\frac{٤}{٩}$ ج $\frac{٥}{٩}$ د $\frac{٢}{٣}$

الحل

السؤال ١٢٦ في الشكل التالي، مؤشران يدور الأول ٥ دورات كل ثانية، ويدور الثاني ٩ دورات كل ثانية ، فإذا دار الأول ٤٥ دورة، فكم دورة دارها المؤشر الثاني؟

أ ٩ ب ٤٥ ج ٧٥ د ٨١

الحل

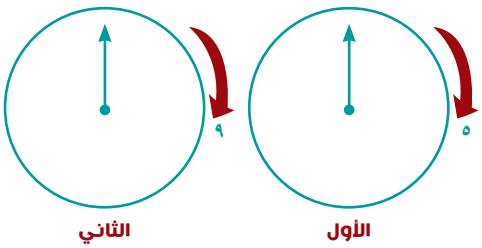

السؤال ١٢٧ في الشكل المجاور،

قارن بين:

القيمة الأولى	القيمة الثانية
س + ص	٩٠

أ القيمة الأولى أكبر ب القيمة الثانية أكبر ج القيمتان متساويتان د المعطيات غير كافية

الحل

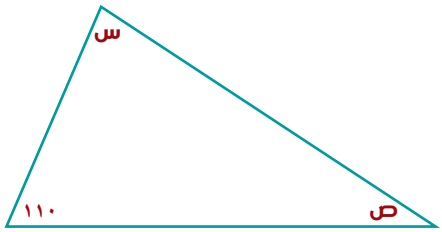

السؤال ١٢٨ أوجد الحد التالي : $\frac{١}{٤}$ ٥ ، $\frac{١}{٢}$ ٦ ، $\frac{٣}{٤}$ ٧ ،

أ ٨ ب $\frac{١}{٤}$ ٨ ج ٩ د ٩,٥

الحل

السؤال ١٢٩ مجموع طول علي وفاطمه ٣٠٠ سم وعلي أطول من فاطمه ،

فقارن بين:

القيمة الأولى	القيمة الثانية
طول علي	١٥٠ سم

أ القيمة الأولى أكبر ب القيمة الثانية أكبر ج القيمتان متساويتان د المعطيات غير كافية

الحل

السؤال ١٣٠ شخص يعمل خمس أسابيع ويحصل على ٥٠٠ ريال بالإضافة إلى جهاز حاسب وشخص آخر يعمل ثلاث أسابيع ويحصل على ٦٠٠ ريال ، إذا كان أجر الأسبوع ثابت فكم سعر الحاسب الآلي؟

أ ٥٠٠ ب ٥٥٠ ج ٦٠٠ د ٦٥٠

الحل

بكر أكاديمي

السؤال ١٣١ إذا كانت $\frac{١٠٠}{س} = (٠,١)^{-١}$، أوجد قيمة س

أ ٠,١ ب ١ ج ١٠ د ١٠٠

الحل

السؤال ١٣٢ إذا كانت س ، ص عددين صحيحين موجبين، حيث ص+س= ٧، فإي الآتي صحيح؟

أ س = ٨ ب س = ٢ ج ١٠ - ص = ٢ د ٤ + ص = ٢

الحل

السؤال ١٣٣ إذا كانت $\frac{ب \times ب \times ب \times ب}{ب + ب + ب + ب} = ٢$ ، أوجد قيمة ب

أ ٢ ب ٣ ج ٤ د ٦

الحل

السؤال ١٣٤ إذا كانت قيمة الضريبة على مبلغ ١٠ ريال = ٠,٦٦ ، فكم قيمة الضريبة على مبلغ ٢٠ ريال؟

أ ١,٢٢ ب ١,٢٥ ج ١,٣٠ د ١,٣٢

الحل

السؤال ١٣٥ إذا كانت س ص قواسم مشتركة للعدد ٢٠ ، و ٣س من قواسم العدد ٢٠ ، فما أكبر قيمة للعدد س ؟

أ ٥ ب ٦ ج ١٠ د ١٥

الحل

السؤال ١٣٦ إذا كانت نسبة رسم مخطط على الورقة إلى المنزل الحقيقي ١ : ٢٠٠ ، وكان طول فناء المنزل بالمخطط ٤سم، فإن طول الفناء الحقيقي بالمتر؟

أ ٦ ب ٨ ج ١٢ د ١٦

الحل

السؤال ١٣٧ الشكل البياني يمثل عدد البنات و الأولاد في المدارس، في أي مدينة عدد البنات = $\frac{١}{٤}$ عدد العيال؟

أ الرياض ب الدمام ج جدة د جازان

الحل

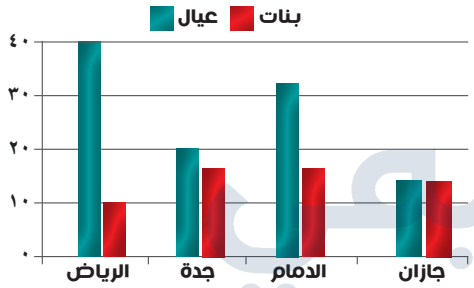

السؤال ١٣٨ أوجد قيمة : $\sqrt{\frac{١}{٠,٠٩} \times ٩}$

أ ١٠ ب $\frac{١}{١٠}$ ج $\frac{١}{١٠٠}$ د $\frac{١}{١٠٠٠}$

الحل

السؤال ١٣٩

قارن بين:

القيمة الأولى	القيمة الثانية
مساحة المثلث أ ب ج	٢ مساحة المثلث أ ب د

أ القيمة الأولى أكبر
ب القيمة الثانية أكبر
ج القيمتان متساويتان
د المعطيات غير كافية

الحل

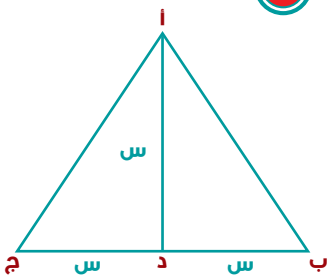

السؤال ١٤٠

إذا كانت نسبة الحاصلين على الدكتوراه إلى الماجستير ٢:٣ ونسبة الحاصلين على الماجستير إلى البكالوريوس ٢:٣ وكان عدد الحاصلين على الدكتوراه ٢٠، فما عدد الحاصلين على البكالوريوس؟

أ ٤٥
ب ١٥
ج ٢٠
د ٣٠

الحل

السؤال ١٤١

قارن بين:

القيمة الأولى	القيمة الثانية
$\sqrt{٠,٩}$	$\sqrt{٪٩}$

أ القيمة الأولى أكبر
ب القيمة الثانية أكبر
ج القيمتان متساويتان
د المعطيات غير كافية

الحل

السؤال ١٤٢

إذا كان س > صفر

قارن بين:

القيمة الأولى	القيمة الثانية
$س^٢$	$(-س)^٣$

أ القيمة الأولى أكبر
ب القيمة الثانية أكبر
ج القيمتان متساويتان
د المعطيات غير كافية

الحل

بكر أكاديمي

السؤال ١٤٣ أوجد الحد التالي: ٣ ، ٥ ، ٩ ، ١٧ ، ٣٣ ، .....

أ ٦٠ ب ٦٢ ج ٦٣ د ٦٥

الحل

السؤال ١٤٤ في الشكل التالي إذا كانت م منتصف الدائرة، أوجد قيمة س

أ ٦٠ ب ٧٥ ج ٤٥ د ١١٠

الحل

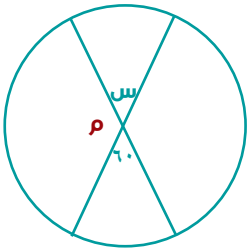

السؤال ١٤٥ من الشكل المجاور أوجد قيمة ص :

أ ٤٠ ب ٣٠ ج ٣٣ د ٤٣

الحل

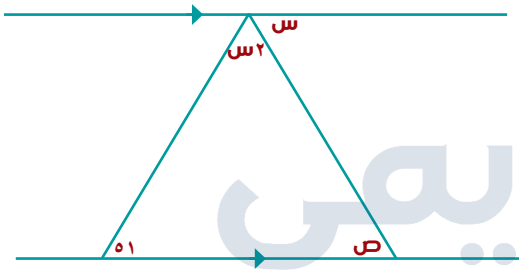

السؤال ١٤٦ ما مساحة الجزء المظلل؟

أ ١٣ ط ب ٢٦ ط ج ٣٦ ط د ٥٢ ط
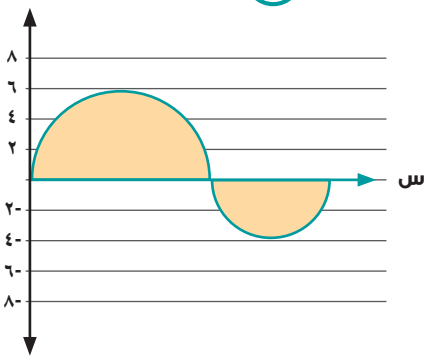
الحل