نموذج

۱۲۱

١

في الشكل التالي : تم تقسيم الشكل إلى مثلثات متطابقة ،
ما نسبة مساحة الجزء المظلل إلى الشكل؟



أ ٪٢٥

ب ٪٤٠

ج ٪٥٠

د ٪٦٠

٢

أحسب قيمة : $\left(\frac{٣\sqrt{٢}}{٦}\right)^{-٢}$

أ) ٢

ب) -٢

ج) $\sqrt{٢}$

د) $-\sqrt{٢}$

٣ ما عدد السيارات التي توفر ٤ لتر أو أقل ؟

عدد السيارات	عدد اللترات المتوفرة
١١	٧ لتر
١٠	٩ لتر
٨	٥ لتر
٩	٤ لتر
٦	٣ لتر
٧	٢ لتر
٧	١ لتر

أ ٢٠

ب ٢٦

ج ٢٧

د ٢٩

٤

قارن بين:

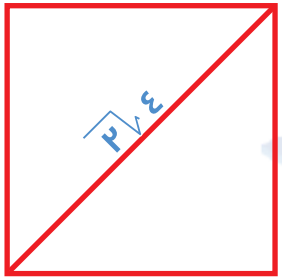

القيمة الأولى	القيمة الثانية
مساحة الدائرة	مساحة المربع

أ القيمة الأولى أكبر

ب القيمة الثانية أكبر

ج القيمتان متساويتان

د المعطيات غير كافية

٥

قارن بين:

القيمة الأولى	القيمة الثانية
محيط الدائرة	محيط المربع

أ القيمة الأولى أكبر

ب القيمة الثانية أكبر

ج القيمتان متساويتان

د المعطيات غير كافية

٦

إذا كان س = $\sqrt{١٦} \times \frac{٣}{٤} + \sqrt{٣٦} \times \frac{١}{٢}$

أوجد قيمة س

أ ٦

ب ٧

ج ٨

د ٩

٧ ٣ [(٢ص + س) + (٢ص + س) + (٢ص + س)] = ...

أ ٣(٢ص + س)

ب ٦(٢ص + س)

ج ٩(٢ص + س)

د ١٢(٢ص + س)

٨ ما العدد الذي إذا طرح منه ٥ ثم قسم الناتج على ٥ ثم ربعنا الناتج كان الناتج ٤٩؟

أ ٣٥

ب ٤٠

ج ٤٥

د ٥٠

٩ إذا كان س > ص ، ع > ص ،

قارن بين:

القيمة الأولى	القيمة الثانية
س	ع

أ القيمة الأولى أكبر

ب القيمة الثانية أكبر

ج القيمتان متساويتان

د المعطيات غير كافية

١٠

في الشكل التالي :
أوجد قيمة س

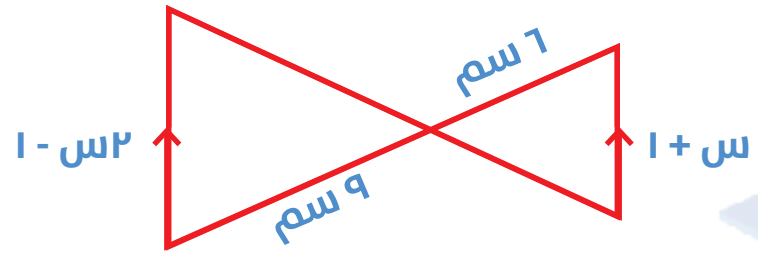

أ ٣

ب ٤

ج ٥

د ٦

١١ إذا كان السودان تمثل ٥٠٪ من إجمالي مجموع الدول، أوجد نسبة السعودية

الدولة	العدد
السودان	٧
الصومال	٢,٤٥
العراق	١,٥
السعودية	٣,٥
المغرب	٠,٥

أ ٢٠٪

ب ٢٥٪

ج ٣٠٪

د ٣٥٪

١٢ إذا كان وسيط القيم ص ، ٤ ، ٥ ، ٢ ، ١١ ، ١٦ هو ٦
فإن ص يمكن أن تكون :

أ ٢

ب ٣

ج ٥

د ٧

١٣ أوجد رُبع $٤^{١٤}$

أ $١^{١٤}$

ب $٢^{١٣}$

ج $٢^{٢٦}$

د $٢^{٢٧}$

١٤

إذا كان $\sqrt{٣} + \sqrt{٣} + \sqrt{٣} = \sqrt{س}$ ،
أوجد قيمة س

أ ٣

ب ٩

ج ٢٧

د ٨١

١٥ في سباق للجري قطع ناصر $\frac{١}{٤}$ المسافة التي قطعها سعد
و قطع سعد ٣ أمثال ما قطعه فهد ،
فما نسبة ما قطعه ناصر إلى ما قطعه فهد ؟

أ $\frac{٣}{٤}$

ب $\frac{٣}{٥}$

ج $\frac{١}{٤}$

د $\frac{١}{٥}$

١٦

أعطى أحمد ابنه خمسة ريالات في اليوم الأول ،
فإذا كان سيعطيه كل يوم مثلي ما أعطاه في اليوم السابق ،
فكم ريالاً سيعطيه في اليوم السادس ؟

أ ٨٠

ب ١٦٠

ج ٣٢٠

د ٤٨٠

١٧ محمود يقرأ كتاب خلال ٦ أيام و كل يوم يقرأ مثلي اليوم السابق له، فكم عدد صفحات الكتاب ، إذا قرأ في اليوم الأول ٥ صفحات

أ ٣٠٠

ب ٣٠٥

ج ٣١٥

د ٣٢٠

١٨

ثلاث شجيرات أطوالها : ٨,٧سم ، ٩,٤سم ، ٥,٥سم ،
عند تقريب الأطوال أولاً ،
كم سنتيمتراً متوسط طول الشجيرات الثلاث ؟

أ ٦

ب ٧

ج ٨

د ٩

١٩ إذا كان النسبة بين عددين $\frac{٤}{٧}$ واحدهما يزيد عن الآخر بـ ٩٠ ، ما العدد الأصغر ؟

أ ٣٠

ب ٦٠

ج ١٢٠

د ٢١٠

٢٠ المطلوب هو المقارنة بين:

القيمة الأولى	القيمة الثانية
آحاد العدد $٦^{٥}$	آحاد العدد $٥^{٦}$

أ القيمة الأولى أكبر

ب القيمة الثانية أكبر

ج القيمتان متساويتان

د المعطيات غير كافية

٢١ إذا كان ن عددًا صحيحًا موجبًا بحيث ن × ن = ن ÷ ن = ن^ن
فإن ن تساوي :

أ ١

ب ٢

ج ٣

د ٤

٢٢

بدأ فيصل قيادة دراجته الساعة ٢٠ : ٥ مساءً،
فوصل إلى منزله الساعة ١٠ : ٧ مساءً،
فما الوقت الذي قضاه في قيادة الدراجة ؟

أ ساعة و ٥٠ دقيقة

ب ساعة و ٤٠ دقيقة

ج ساعة و ٢٠ دقيقة

د ساعة و ١٠ دقائق

٢٣

ما الشرط الذي يجب و ضعه على س

ليصبح المقدار $\frac{٢}{\sqrt{-س}}$ موجبًا دائمًا ؟

أ) س > ٠

ب) س < ٠

ج) س = ٠

د) س ≠ ٠

٢٤ السؤال الآتي يتعلق بالشكل البياني التالي :

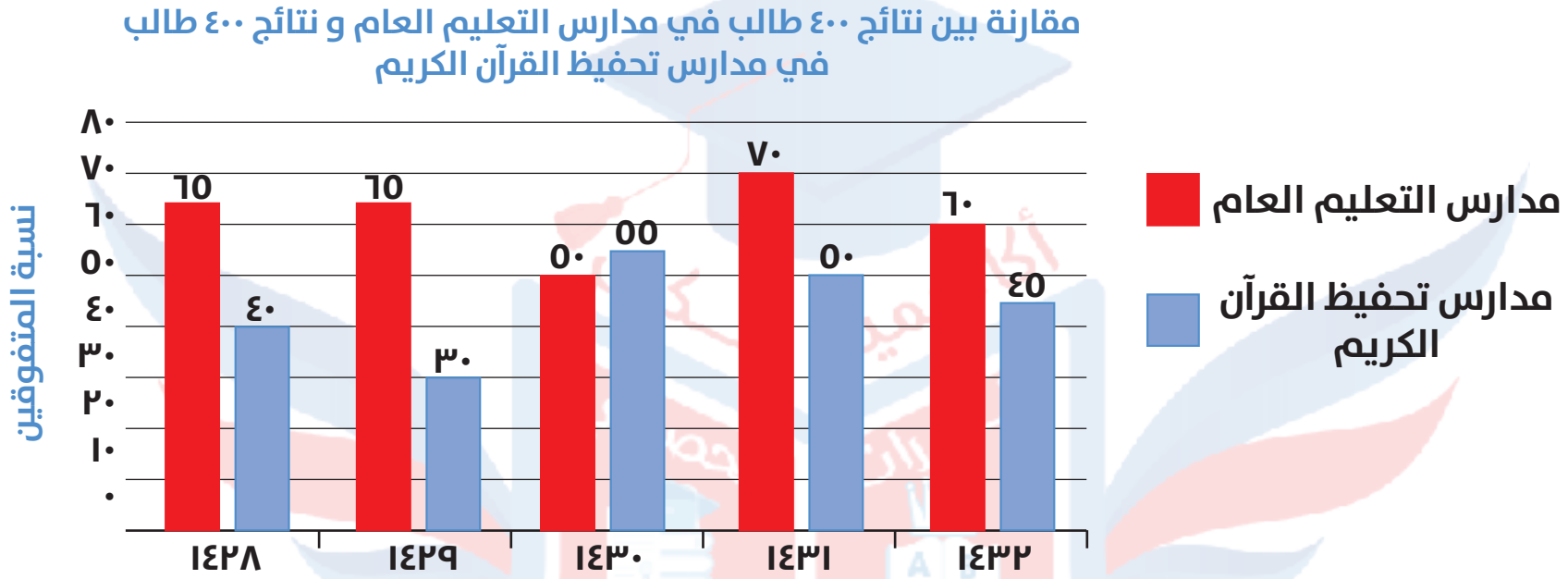

ما العام الذي زادت فيه نسبة المتفوقين من طلاب التعليم العام على نسبة المتفوقين من طلاب تحفيظ القرآن الكريم في العينات المختارة ؟

أ) ١٤٢٨ ب) ١٤٢٩ ج) ١٤٣٠ د) ١٤٣١

٢٥ في الشكل التالي :

أوجد قيمة س

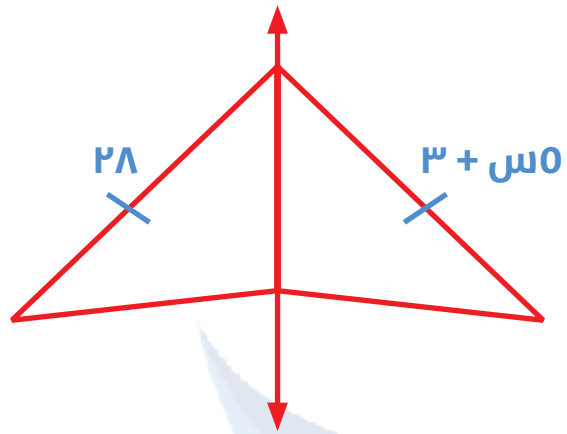

أ ٣

ب ٤

ج ٥

د ٦

٢٦ في الشكل التالي :

أوجد قيمة س

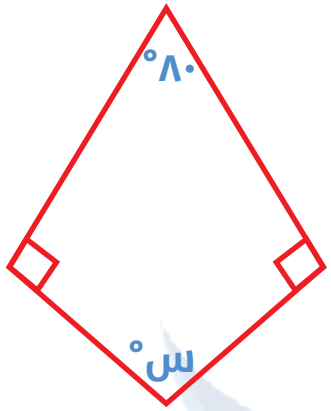

أ ٨٠

ب ٩٠

ج ١٠٠

د ١٢٠

٢٧

قارن بين:

القيمة الأولى	القيمة الثانية
٧٠٠٠ قيراط	١,٤ كيلو جرام

أ القيمة الأولى أكبر

ب القيمة الثانية أكبر

ج القيمتان متساويتان

د المعطيات غير كافية

٢٨ في الشكل التالي :

أوجد قيمة س

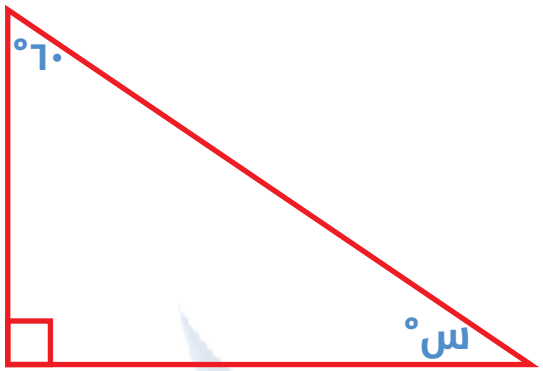

أ ٣٠

ب ٤٠

ج ٥٠

د ٦٠

٢٩ إذا كان ١٥٪ من سعر فستان يساوي ٣٠ ريال ،
ما سعر الفستان ؟

أ ١٠٠
ب ١٢٠
ج ١٥٠
د ٢٠٠

٣٠

قارن بين:

القيمة الأولى	القيمة الثانية
$\left(\frac{١}{٣}\right)^{٢}$	$\left(\frac{١}{٢}\right)^{٤}$

أ القيمة الأولى أكبر

ب القيمة الثانية أكبر

ج القيمتان متساويتان

د المعطيات غير كافية

٣١ إذا كان $(٩)^{\frac{ص}{٢}} = ٨١$ ،

قارن بين:

القيمة الأولى	القيمة الثانية
ص	٦

أ القيمة الأولى أكبر

ب القيمة الثانية أكبر

ج القيمتان متساويتان

د المعطيات غير كافية

٣٢ الشكل التالي يبين توزيع ٤٠٠ مراجع لمستشفي حسب النوع ،
ما قياس زاوية قطاع النساء ؟

أ ١٠٠
ب ١١٠
ج ١٢٠
د ١٢٦

٣٣

يختبر سعد اختبار الحد الأدنى لاجتيازه ١٠٠ درجة ،
كم درجة يجب أن يحصل سعد لاجتياز الاختبار ؟

أ ٧٥

ب ٨٠

ج ٩٠

د ١٠٠

٣٤

هناك مجموعة من الأقلام و الدفاتر وكل قلمين أمامهم دفتر واحد ، فإذا أضفنا على المجموعة ٢٤ قلم أصبح كل ٥ أقلام أمامهم دفتر ، كم عدد الدفاتر ؟

أ ٣

ب ٦

ج ٧

د ٨

٣٥ إذا كان س ، ص أعداد صحيحة موجبة وَ س = ص٪ ،

قارن بين:

القيمة الأولى	القيمة الثانية
س × ١٠٠	ص

أ القيمة الأولى أكبر

ب القيمة الثانية أكبر

ج القيمتان متساويتان

د المعطيات غير كافية

٣٦ أوجد طول نصف قطر دائرة محيطها يساوي نصف محيط دائرة طول نصف قطرها ٤سم

أ ٢

ب $\sqrt{٢}$

ج ط

د ٢ط

٣٧

الشكل التالي:

ورقة على شكل مستطيل مساحته = ٤سم^{٢} ،

أوجد قيمة س

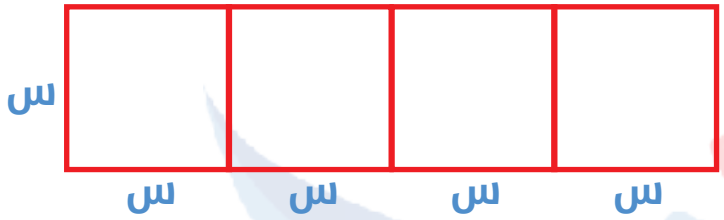

أ ١

ب ٢

ج ٣

د ٤

٣٨

قارن بين:

القيمة الأولى	القيمة الثانية
$(\frac{١}{٣})^{٣} \times ٣$	$(\frac{١}{٣})^{٢} \times ٣$

أ القيمة الأولى أكبر

ب القيمة الثانية أكبر

ج القيمتان متساويتان

د المعطيات غير كافية

٣٩ كأس على شكل أسطوانة مساحة قاعدتها ١٥سم^{٢} و ارتفاعها ١٥سم، فما حجم السائل المطلوب لملئ الكأس بحث لا يتجاوز ثلثي سعة الكأس ؟

أ ٥٠

ب ١٠٠

ج ١٥٠

د ٢٠٠

٤٠

قارن بين:

القيمة الأولى	القيمة الثانية
$(-٨١)^{١٨}$	$(-٨١)^{١٧}$

أ القيمة الأولى أكبر

ب القيمة الثانية أكبر

ج القيمتان متساويتان

د المعطيات غير كافية

٤١

السؤال التالي يتعلق بالشكل البياني أدناه :

في عام ٢٠٠٠م أنشأ أحد المصارف أربعة صناديق استثمارية صناعية للمرابحة ، و فيما يلي أرباحها السنوية خلال خمس سنوات



أي الصناديق كان الأفضل في متوسط الربح خلال السنوات الخمس ؟

أ ١ ب ٢ ج ٣ د ٤

٤٢

السؤال التالي يتعلق بالشكل البياني أدناه :

في عام ٢٠٠٠م أنشأ أحد المصارف أربعة صناديق استثمارية صناعية للمرابحة ، و فيما يلي أرباحها السنوية خلال خمس سنوات



أي الصناديق كان الأقل في متوسط الربح خلال السنوات الخمس ؟

أ ١ ب ٢ ج ٣ د ٤

٤٣

السؤال التالي يتعلق بالشكل البياني أدناه :

في عام ٢٠٠٠م أنشأ أحد المصارف أربعة صناديق استثمارية صناعية للمرابحة ، و فيما يلي أرباحها السنوية خلال خمس سنوات



أي الصناديق لم يخسر في آخر ٣ سنوات ؟

أ ١ ب ٢ ج ٣ د ٤

٤٤

السؤال التالي يتعلق بالشكل البياني أدناه :

في عام ٢٠٠٠م أنشأ أحد المصارف أربعة صناديق استثمارية صناعية للمرابحة ، و فيما يلي أرباحها السنوية خلال خمس سنوات



إذا كان وضع أحمد مبلغ ٢٠٠٠ ريال في الصندوق الثالث بداية عام ٢٠٠١ إلى نهاية عام ٢٠٠٢ ، كم يكون المبلغ إذا كان الربح مركب ؟

أ ٢٣٢٨

ب ٢٨٦٠

ج ٢٩٥٢

د ٣٢٥٠

٤٥

السؤال التالي يتعلق بالشكل البياني أدناه :

في عام ٢٠٠٠م أنشأ أحد المصارف أربعة صناديق استثمارية صناعية للمرابحة ، و فيما يلي أرباحها السنوية خلال خمس سنوات

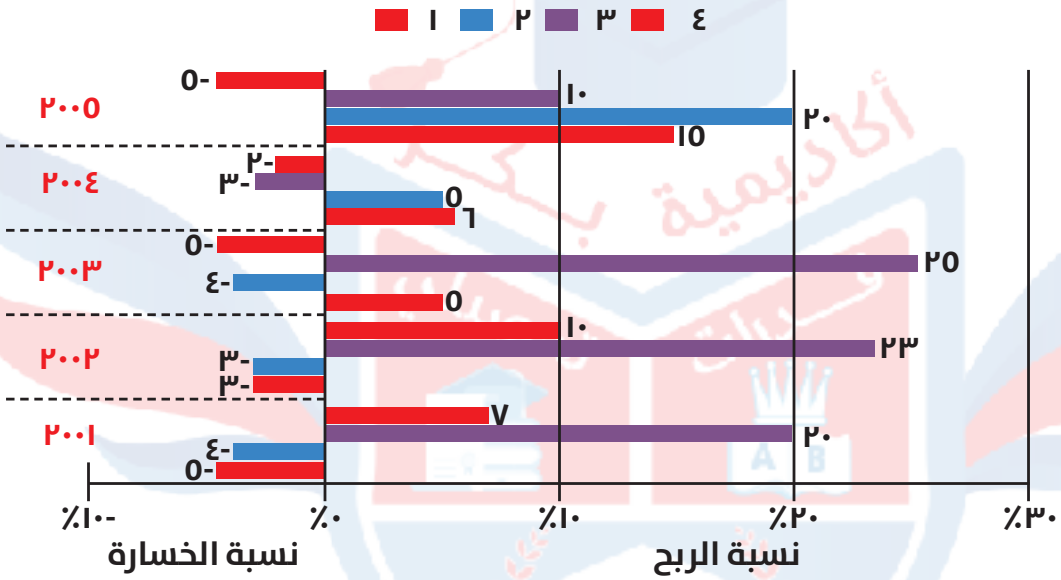

إذا كان وضع أحمد مبلغ ١٠٠٠٠ ريال في الصندوق الثالث بداية عام ٢٠٠١ إلى نهاية عام ٢٠٠٢ ، كم يكون المبلغ إذا كان الربح مركب ؟

أ) ١١٧٧٧

ب) ١١٧٧٠

ج) ١١٧٠٠

د) ١١٠٠٠

٤٦

إذا كان س^{٢} + ٨ = ٥٧ ،
أوجد قيمة س^{٢} - ٨

أ ٤٧

ب ٤٥

ج ٤٣

د ٤١

٤٧ في أي عام كان أقل عائد بسوق الاستثمار السعودي ؟

أ ٢٠٠٣

ب ٢٠٠٤

ج ٢٠٠٥

د ٢٠٠٦

٤٨

قارن بين:

القيمة الأولى	القيمة الثانية
$٣ \times \frac{٢}{٣} + ٢$	$\sqrt{١٥}$

أ القيمة الأولى أكبر

ب القيمة الثانية أكبر

ج القيمتان متساويتان

د المعطيات غير كافية

الإجابات

١	٢	٣	٤	٥	٦	٧	٨
ج	أ	د	ب	ب	أ	ج	ب
٩	١٠	١١	١٢	١٣	١٤	١٥	١٦
د	ج	ب	د	ج	ج	أ	ب
١٧	١٨	١٩	٢٠	٢١	٢٢	٢٣	٢٤
ج	ج	ج	ب	أ	أ	ب	ج
٢٥	٢٦	٢٧	٢٨	٢٩	٣٠	٣١	٣٢
ج	ج	ج	أ	د	أ	ب	د
٣٣	٣٤	٣٥	٣٦	٣٧	٣٨	٣٩	٤٠
د	د	ج	أ	أ	ب	ج	أ
٤١	٤٢	٤٣	٤٤	٤٥	٤٦	٤٧	٤٨
ج	د	أ	ج	ب	د	أ	أ