بكـر أكاديمي

أكاديمية بـكـر للقدرات

النماذج الأكثر تكرارًا

إعداد
المدرب أحمد بكـر

الإصدار
2

السؤال ١

أوجد قيمة : $\frac{\frac{١}{٣}}{١ + \frac{١}{٣}} + \frac{١}{٣} =$

أ) $\frac{٣}{٤}$

ب) $\frac{٧}{١٢}$

ج) ٥

د) ١٢

بكـر أكاديمي

السؤال ٢

أوجد قيمة س

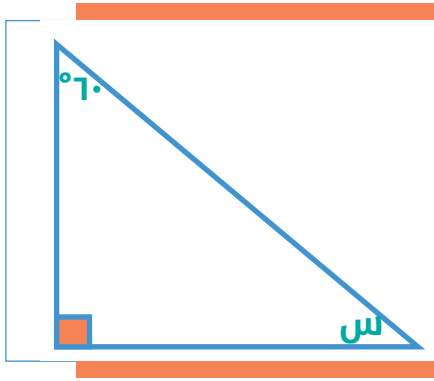

أ) ٣٠

ب) ٤٠

ج) ٥٠

د) ٦٠

بكـر أكاديمي

السؤال ٣

فستان إذا أضفنا إليه ٥٠٠ ريال اصبح يساوي ٥ أمثال قيمة الفستان مطروح منه ٩٠٠ ريال ، فكم قيمة الفستان ؟

أ) ٣٠٠
ب) ٣٥٠
ج) ٤٠٠
د) ٤٥٠

بكـر أكاديمي

السؤال ٤

إذا كان $س^{٢} - ص^{٢} = ل$ ، $س + ص = م$، أوجد قيمة $س - ص$

أ) ل م

ب) ل + م

ج) $\frac{ل}{م}$

د) $\frac{م}{ل}$

السؤال ٥

إذا كان متوسط درجات طلاب فصل ٨٥
وهناك طالب غائب وعند إعادة اختباره حصل على ٣٠ درجة
واصبح متوسط درجات طلاب الفصل ٨٠ ، ما عدد طلاب الفصل؟

أ) ٩
ب) ١٠
ج) ١١
د) ١٢

بكـر أكاديمي

السؤال ٦

الشكل المجاور يمثل جنسيات موظفين شركة عدد الموظفين بها ٤٢٠ ، إذا أرادت الشركة زيادة الموظفين السعوديين إلى ٥٠ ٪ عن طريق استبدال بعض موظفي الشركة من جنسيات الأخرى ، فكم سعودياً توظف؟

أ) ٧٠
ب) ٧٥
ج) ٨٠
د) ٨٥

السؤال ٧

في الشكل المجاور: ٧مربعات ، مساحة المربع الواحد ١٦ سم^{٢}،
أوجد محيط الشكل

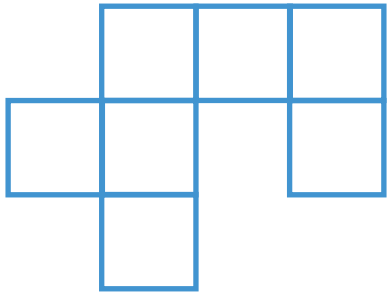

أ) ١٦

ب) ٣٢

ج) ٦٤

د) ١١٢

بكـر أكاديمي

السؤال ٨

عددان مكونان من رقمين ، أحاد أحدهما يساوي عشرات العدد الآخر والعكس ، والفرق بين العددين = ١٨ ، ما أحد هذين العددين؟

أ) ٧٤

ب) ٦٤

ج) ٨٥

د) ٩٤

بكـر أكاديمي

السؤال ٩

ما العام الذي فيه عدد المقبولين أقل من ٣٪ من عدد المطبقين ؟

العام	مطبق	مقبول
٢٠١٠	٣٠٠٠	١٥٠
٢٠١١	٤٥٠٠	٣٥٠٠
٢٠١٢	٥٠٠٠	١٦٠
٢٠١٣	٨٥٠٠	١٧٠
٢٠١٤	٦٠٠٠	٥٠٠

أ) ٢٠١٠

ب) ٢٠١١

ج) ٢٠١٢

د) ٢٠١٣

بكـر أكاديمي

السؤال ١٠

أي المدن في زيادة مطردة ؟

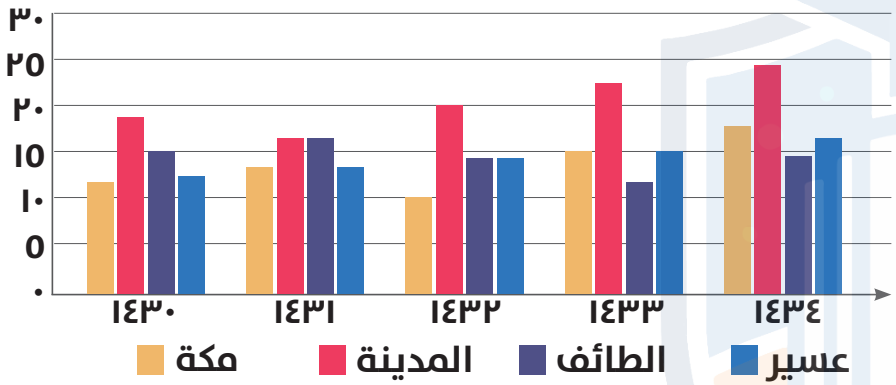

أ) مكة

ب) المدينة

ج) الطائف

د) عسير

السؤال ١١

أوجد قيمة $(٢١٣)^{٢} - (٢١٢)^{٢}$

أ) ٤٥٠

ب) ٤٢٥

ج) ٤١٥

د) $٤٢٥^{٢}$

بكـر أكاديمي

السؤال ١٢

لدينا غرفة طولها ١٠ م ، وعرضها ٦م ،
وتحتاج ٣ طن لتبريدها ، ما ارتفاع الغرفة بالمتر؟

	وحدة حرارية
١م^{٣}	٣٠٠
١ طن	١٢٠٠٠

أ) ١,٥
ب) ٢
ج) ٣
د) ٤

بكـر أكاديمي

السؤال ١٣

إذا كان أحمد مثلي طول خالد ، وكان طول خالد ٧٠ ٪ من طول سعد ، وكان هادي ١٢٠ ٪ من طول أحمد، فمن أقصر واحد ؟

أ) أحمد
ب) خالد
ج) سعد
د) هادي

بكـر أكاديمي

السؤال ١٤

$(س + ٣)^{٢٢} = ٢٢٩$ ، أوجد قيمة س

أ) ٣

ب) ٥

ج) ٦

د) ٧

بكـر أكاديمي

السؤال ١٥

إذا كان محيط المثلث = ٢٨

قارن بين

القيمة الأولى	القيمة الثانية
$١ + \frac{س}{٢}$	$\frac{\sqrt{س + ١}}{٢}$

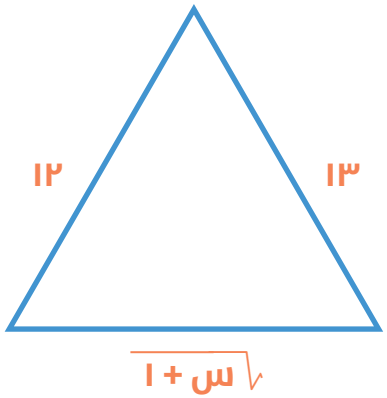

أ القيمة الأولى أكبر

ب القيمة الثانية أكبر

ج القيمتان متساويتان

د المعطيات غير كافية

السؤال ١٦

قارن بين

القيمة الأولى	القيمة الثانية
$\frac{٦}{٥} \div \frac{٥}{٦}$	$\frac{٥}{٦} \div \frac{٦}{٥}$

أ القيمة الأولى أكبر

ب القيمة الثانية أكبر

ج القيمتان متساويتان

د المعطيات غير كافية

السؤال ١٧

ما نسبة الأسلحة الغير تالفة؟

العدد الكلي للأسلحة	١٢٠ رشاش
الأسلحة التالفة جزئيًا	٣٥ رشاش
الأسلحة التالفة كليًا	٤٥ رشاش

أ) ٣٠٪

ب) ٣٣٪

ج) ٤٠٪

د) ٦٧٪

بكـر أكاديمي

السؤال ١٨

قارن بين

القيمة الأولى	القيمة الثانية
$٤^{٥}$	٤ × ٤ × ٤ × ٤ × ٤

أ القيمة الأولى أكبر

ب القيمة الثانية أكبر

ج القيمتان متساويتان

د المعطيات غير كافية

السؤال ١٩

إذا كان نصف قطر الدائرة = ٣ ،
وقاعدة المتوازي في مركز الدائرة ،
كم مساحة المنطقة المظللة؟

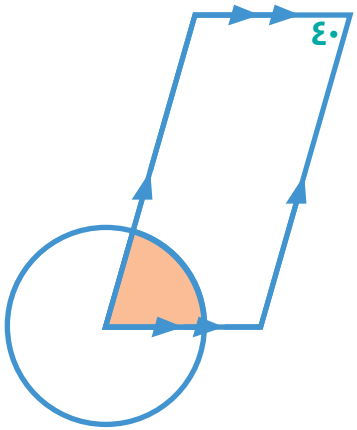

"الرسم ليس على القياس"

أ) ط

ب) ٢ط

ج) ٣ط

د) ٥ط

السؤال ٢٠

يستخدم أحمد العد القفزي بمقدار ٥ أعداد،
ويستخدم ناصر العد القفزي بمقدار ٣ أعداد،
فإذا كانت بدايتهما من الصفر ونهايتهما قبل العدد ١٠٠ ،
فكم عدد الأعداد المشتركة بينهما؟

أ) ٤
ب) ٥
ج) ٦
د) ٧

بكـر أكاديمي

السؤال ٢١

إذا كانت جميع الدوائر متطابقة و مساحة الدائرة ٩ط ،
أوجد مساحة المستطيل

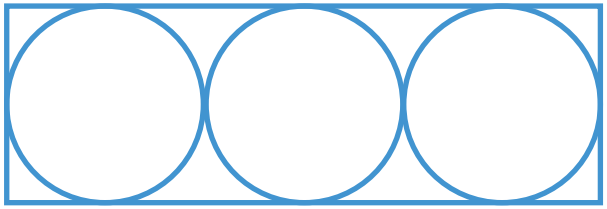

أ) ١٠٨

ب) ٩٠

ج) ١٢٠

د) ٦٠

بكـر أكاديمي

السؤال ٢٢

أوجد قيمة : $\sqrt[٨]{٨١ \times ٨١ \times ٨١ \times ٨١}$

أ) $٣^{٢}$

ب) $٣^{\frac{١}{٢}}$

ج) $٣^{٤}$

د) $٣^{٣}$

السؤال ٢٣

إذا كانت : ٥ × ٥ × ٥ × ٥ × س = ١٠ × ١٠ × ص

قارن بين

القيمة الأولى	القيمة الثانية
س	ص

أ القيمة الأولى أكبر

ب القيمة الثانية أكبر

ج القيمتان متساويتان

د المعطيات غير كافية

بكـر أكاديمي

السؤال ٢٤

ما قيمة نصف الحد الخامس : ١١ ، ٢٢ ، ٤٤ ، ٨٨ ، .....

أ) ٩٩

ب) ٤٤

ج) ٨٨

د) ٦٦

بكـر أكاديمي

السؤال ٢٥

(ص ، ٥) ، (٥ ، ٩) ، (٣ ، س) ، (٥ ، ٩) نقطة منتصف بينهم

قارن بين

القيمة الأولى	القيمة الثانية
ص	س

أ القيمة الأولى أكبر

ب القيمة الثانية أكبر

ج القيمتان متساويتان

د المعطيات غير كافية

السؤال ٢٦

$(٩٩٩)^{٢} - ١ = ...$

أ) ٢٩٩٩

ب) ٢٩٩٨

ج) ٩٩٨٠٠٠

د) ٩٩٩٠٠

بكـر أكاديمي

السؤال ٢٧

سيارة تقطع مسافة ٧٢ كلم في ٣٢ دقيقة ،
فكم سرعتها بال كلم / س ؟

أ) ١١٠
ب) ١٣٥
ج) ١٦٠
د) ٢٢٥

بكـر أكاديمي

السؤال ٢٨

إذا كانت ، - ($\frac{١}{٢}$ س) $^{-٣}$ = ٨ ،
أوجد قيمة س

أ) -١

ب) ١

ج) ٢

د) $\frac{١}{٢}$

بكـر أكاديمي

السؤال ٢٩

إذا باع شخص ٦ بطاريات بـ ٣٠٠ ريال، فبكم سيبيع ١٠ بطاريات؟

أ ٦٠٠

ب ١٠٠

ج ٥٠٠

د ٥٥٠

بكـر أكاديمي

السؤال ٣٠

سيارتان تسيران بعكس الاتجاه من نفس النقطة،
الأولى بسرعة س كم/س والثانية بسرعة ص كم/س،
ما العلاقة التي تمثل المسافة بينهما بعد ساعة؟

أ) ص × س

ب) $\frac{ص}{س}$

ج) ص - س

د) ص + س

بكـر أكاديمي

السؤال ٣١

إذا كان ٢^{س} = ٣ ، فإن ٨^{س}

أ) ٩

ب) ١٦

ج) ٢٧

د) ٨١

بكـر أكاديمي

السؤال ٣٢

اشترى تاجر سلعة ب ٩٠ ريال ويبيعها بربح ٥٠ ٪
وأي مشتري يدفع نقدًا له خصم ٣٠ ٪ من سعر البيع ،
ما نسبة ربح التاجر إذا باع السلعة نقدًا ؟

أ) ١٦٪
ب) ٥٪
ج) ١١٪
د) ٢٠٪

بكـر أكاديمي

السؤال ٣٣

ثلاثة أعداد متتالية أحدهم ١١ وحاصل ضربهم ٩٩٠ ،
فما مجموع هذه الأعداد ؟

أ) ٢٧
ب) ٣٠
ج) ٣٢
د) ٣٦

بكـر أكاديمي

السؤال ٣٤

أوجد قيمة س في الشكل المجاور :

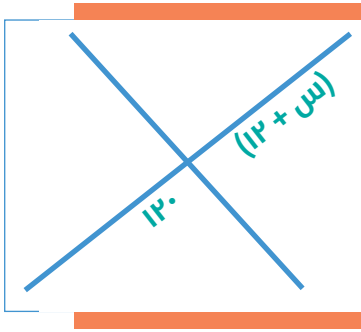

أ) ٦٠

ب) ٧٥

ج) ٨٠

د) ٤٨

بكـر أكاديمي

السؤال ٣٥

في الشكل التالي، دائرة مركزها م، ونصف قطرها ٤ سم ،
كم سنتيمترًا مربعًا مساحة الجزء المظلل؟

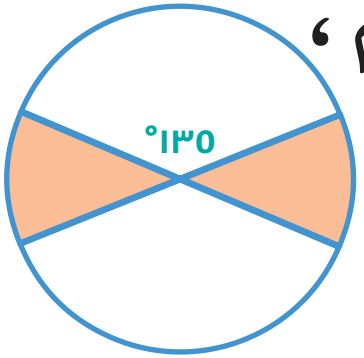

"الرسم ليس على القياس"

أ) ١٢ط

ب) ١٠ط

ج) ٦ط

د) ٤ط

السؤال ٣٦

إذا كان س + ٤ = ١٠ ،
أوجد قيمة س

أ) ٢
ب) ٤
ج) ٦
د) ٨

بكـر أكاديمي

السؤال ٣٧

في الشكل المجاور :
أوجد قيمة هـ

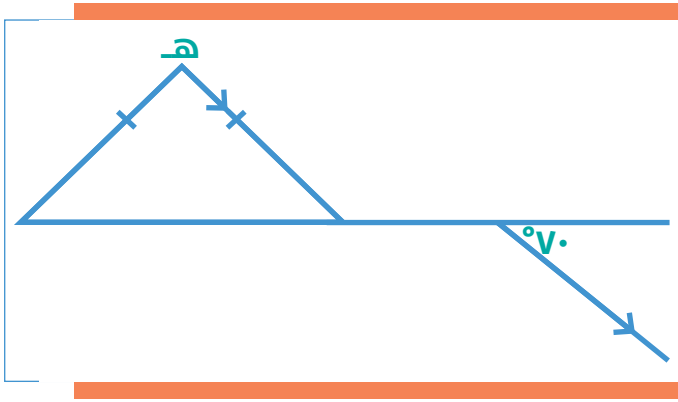

أ) ٧٠
ب) ١١٠
ج) ٤٠
د) ٦٠

السؤال ٣٨

المثلثان متشابهان ، أوجد قيمة س

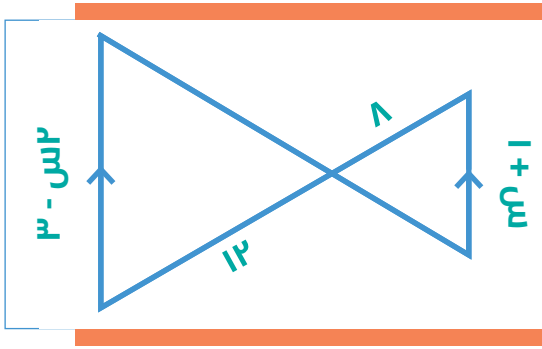

أ) ٦

ب) ٧

ج) ٨

د) ٩

بكـر أكاديمي

السؤال ٣٩

إذا كان : ١٤ < س < ص < ع < ٢٦
س و ص و ع أعداد فردية متتالية أحدهم عدد أولي أوجد ص+ع

أ) ٣٦
ب) ٤٠
ج) ٤٤
د) ٤٨

بكر أكاديمي

السؤال ٤٠

نادي به ٥٠ مشترك ، ٣٠ منهم مشتركين في كرة القدم و ٢٦ مشتركين في السباحة و ٦ غير مشتركين في كرة القدم ولا السباحة ، كم عدد المشتركين في كرة القدم والسباحة؟

أ) ٠

ب) ٦

ج) ١٢

د) ٤

بكـر أكاديمي

السؤال ٤١

من الشكل المجاور
ما نسبة مساحة الدائرة الصغرى إلى نسبة مساحة الدائرة الكبرى؟

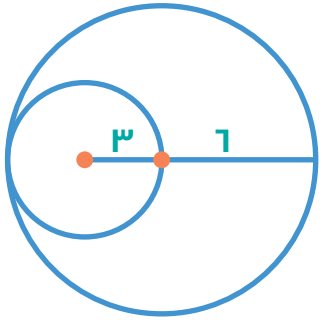

أ) ٤ : ٦
ب) ١ : ٤
ج) ٣ : ٨
د) ٢ : ٣

بكـر أكاديمي

السؤال ٤٢

١ + ٢ + ٣ + ٤ + ٥ + ٦ + ٦ + ٥ + ٤ + ٣ + ٢ + ١

أ) ٧ × ٩

ب) ٧ × ٥

ج) ٧ × ٦

د) ٧ × ٤

بكـر أكاديمي

السؤال ٤٣

أوجد الحد التالي : ٣ ، ٥ ، ٩ ، .....

أ) ١٦

ب) ١٧

ج) ١٨

د) ١٩

بكـر أكاديمي

السؤال ٤٤

$(٠,٠١)^{٣} = ...$

أ) ٠,٠٣٣٣

ب) ٠,٠٠٠٠٠١

ج) ٠,٠٠١٠٠١

د) ٠,٣٣٣٣

بكـر أكاديمي

السؤال ٤٥

إذا كان ٣ أمثال عُمّر محمد أقل من عُمّر والده بثلاث سنوات ،
فكم سنة عُمّر والده إذا كان عُمّر محمد الآن ١٥ سنة؟

أ) ٤٥
ب) ٤٦
ج) ٤٨
د) ٤٩

بكـر أكاديمي

السؤال ٤٦

ما نسبة مساحة المثلث أ هـ ج إلى مساحة الشكل :

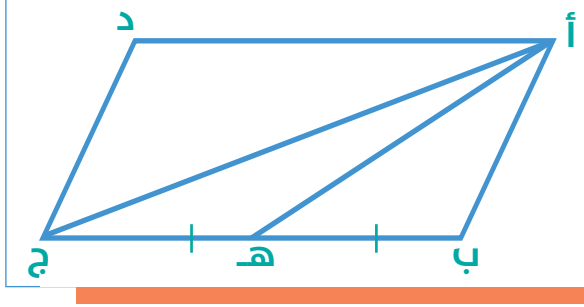

أ) $\frac{١}{٢}$

ب) $\frac{١}{٣}$

ج) $\frac{١}{٤}$

د) $\frac{١}{٨}$

بكـر أكاديمي

السؤال ٤٧

قارن بين

القيمة الأولى	القيمة الثانية
١٠٠٪ من ٩٠	١٨٠

أ القيمة الأولى أكبر

ب القيمة الثانية أكبر

ج القيمتان متساويتان

د المعطيات غير كافية

السؤال ٤٨

في الشكل المجاور ،
أوجد قياس الزاوية س

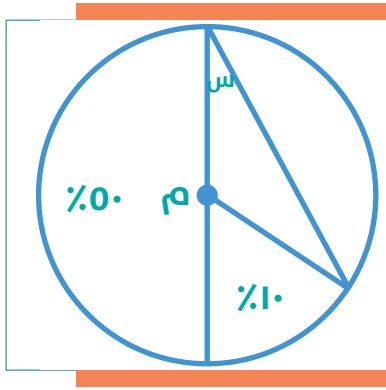

أ) ١٨

ب) ٣٦

ج) ٢٠

د) ٣٢

بكـر أكاديمي

السؤال ٤٩

$$\frac{٦٦٦}{٣٣٣} \left(\frac{٤٤٤}{٥٥٥} \div \frac{٤٤٤}{٥٥٥} \right)$$

أ) ٢

ب) -٢

ج) ٦٦٦

د) ٣٣٣

بكـر أكاديمي

السؤال ٥٠

في الشكل المجاور :

دائرة قطرها ٤ سم ، ما مساحة الجزء الغير مظلل؟

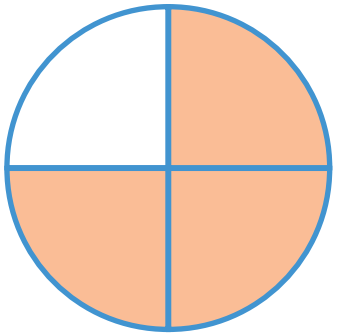

"الرسم ليس على القياس"

أ) ط

ب) ٢ط

ج) ٣ط

د) ٤ط

بكـر أكاديمي

السؤال ٥١

بعد سبع سنوات من الآن يصبح عُمر أم و ٣ من أبنائها ٩٢ عام ،
كم يصبح عمرهم بعد ٤ سنوات من الآن؟

أ) ٨٨
ب) ٨٧
ج) ٨٦
د) ٨٠

بكـر أكاديمي

السؤال ٥٢

دفع احمد ٤٥ ٪ من تكلفة بناء مسجد وفهد دفع ٢٥ ٪ وتبقى ٣٦٠٠٠٠ ، كم تكلفة المسجد كاملة

أ) ١٢٠٠٠٠٠

ب) ٣٦٠٠٠٠٠

ج) ٢٤٠٠٠٠٠

د) ١٠٠٠٠٠٠

بكـر أكاديمي

السؤال ٥٣

في الشكل المجاور مستطيل احد بعديه فردي ،
أوجد محيطه

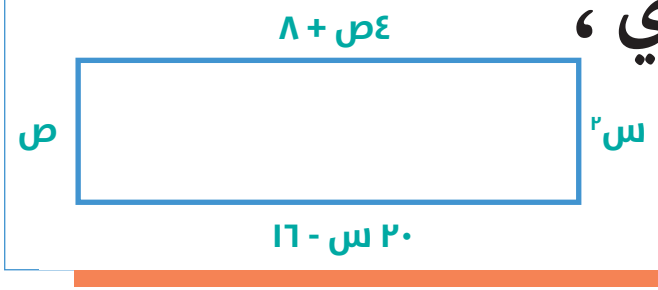

أ) ٥٦

ب) ٨٨

ج) ١٠٦

د) ١١٦

السؤال ٥٤

إذا كان صفر > ص > س

قارن بين

القيمة الأولى	القيمة الثانية
(س)^{٢٠١٦}	(ص)^{٢٠١٥}

أ القيمة الأولى أكبر

ب القيمة الثانية أكبر

ج القيمتان متساويتان

د المعطيات غير كافية

السؤال ٥٥

إذا كان أ - ب = ٥ ، ب - ج = ٣ ، ج + د = ١ ، أوجد قيمة أ + د

أ) ٢

ب) ٤

ج) ٦

د) ٩

بكـر أكاديمي

السؤال ٥٦

قارن بين

القيمة الأولى	القيمة الثانية
طول أب	طول ب ج

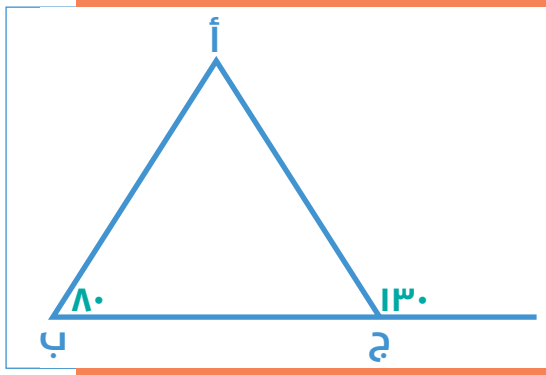

أ) القيمة الأولى أكبر

ب) القيمة الثانية أكبر

ج) القيمتان متساويتان

د) المعطيات غير كافية

بكـر أكاديمي

السؤال ٥٧

$$\frac{س^{٥}}{٣٦} = \frac{٤}{٩ \times \frac{١}{٢}}$$ فما قيمة س؟

أ) ٢

ب) ٤

ج) ٦

د) ٨

بكـر أكاديمي

السؤال ٥٨

أوجد قيمة المجهول في الشكل التالي

؟	٧	ا
ط	خ	أ

أ) ١٢

ب) ١٣

ج) ١٤

د) ١٦

بكـر أكاديمي

السؤال ٥٩

إذا كان أ = $\frac{١}{ب}$ ، ب = $\frac{١}{ج}$ ، ج = $\frac{١}{د}$ ، د = $\frac{٦٤}{٤٩}$ ،
كم ناتج (أ + ج) د ؟

أ) ٨
ب) ٦
ج) ٤
د) ٢

بكـر أكاديمي

السؤال ٦٠

مع هند مبلغ من المال أعطت أختها ٣٥ ٪ من المبلغ و٢٥٪ لأخوها وتبقى لديها ٤٦ ريال ، فكم كان معها؟

أ) ١٠٣
ب) ١٠٦
ج) ١١٢
د) ١١٥

بكـر أكاديمي

السؤال ٦١

إذا كان ص تتناسب عكسيًا مع س، ص = ٤ عندما س = ٦ ،
أوجد قيمة ص عندما س = ١٢

أ) ٢
ب) ٤
ج) ٦
د) ٨

بكـر أكاديمي

السؤال ٦٢

$$\left(\frac{أ}{ب}\right)^{٢} \times \left(\frac{ب}{أ}\right)^{٣} \times \left(\frac{أ}{ب}\right)^{٤} \times \left(\frac{ب}{أ}\right)^{٥}$$

أ) ١

ب) ٢

ج) $\left(\frac{ب}{أ}\right)^{٢}$

د) ٥

بكـر أكاديمي

السؤال ٦٣

إذا كان متوسط القيم ٣ ، ٨ ، ١٢ ، س يساوي ٢٠، ما قيمة س؟

أ) ٥٧
ب) ٦٦
ج) ٥٤
د) ٧٨

بكـر أكاديمي

السؤال ٦٤

قارن بين

القيمة الأولى	القيمة الثانية
١٥٠٠ جرام	١,٥ كيلو جرام

أ القيمة الأولى أكبر

ب القيمة الثانية أكبر

ج القيمتان متساويتان

د المعطيات غير كافية

بكر أكاديمي

السؤال ٦٥

كم عدد الأسلحة الغير تالفة ؟

العدد الكلي للأسلحة	١٥٠
الأسلحة التالفة جزئيًا	٣٥
الأسلحة التالفة كليًا	٤٥

أ) ٥٠
ب) ٦٠
ج) ٧٠
د) ٨٠

بكـر أكاديمي

السؤال ٦٦

أوجد قيمة س + ص

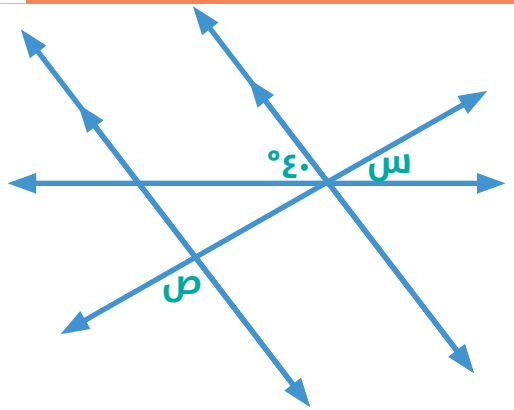

أ) ١٦٠

ب) ١٤٠

ج) ١٢٠

د) ١٠٠

بكـر أكاديمي

السؤال ٦٧

أوجد طول نصف القطر
إذا كانت أ ب قطر الدائرة :

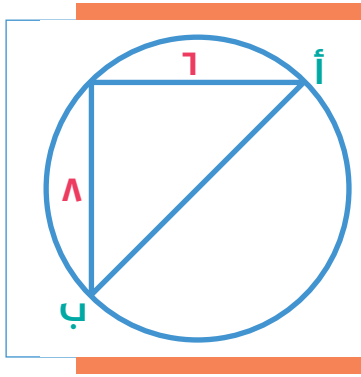

أ) ١٠
ب) ٥
ج) ٨
د) ٦

بكـر أكاديمي

السؤال ٦٨

المثلثات و المربعات متطابقة

قارن بين

القيمة الأولى	القيمة الثانية
مساحة الشكل ١	مساحة الشكل ٢

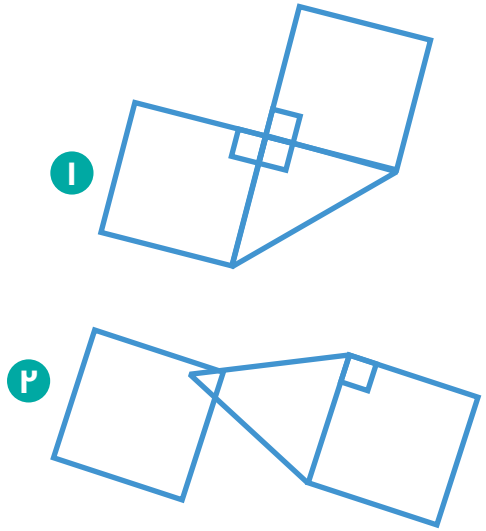

أ القيمة الأولى أكبر

ب القيمة الثانية أكبر

ج القيمتان متساويتان

د المعطيات غير كافية

بكـر أكاديمي

السؤال ٦٩

أوجد س + ص

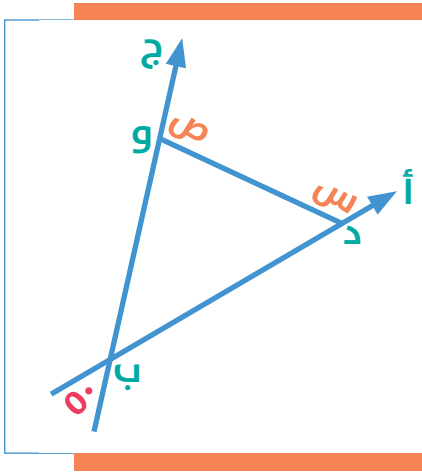

أ) ٢٢٠

ب) ٢٣٠

ج) ١٨٠

د) ٢٧٠

بكـر أكاديمي

السؤال ٧٠

أوجد قيمة ص

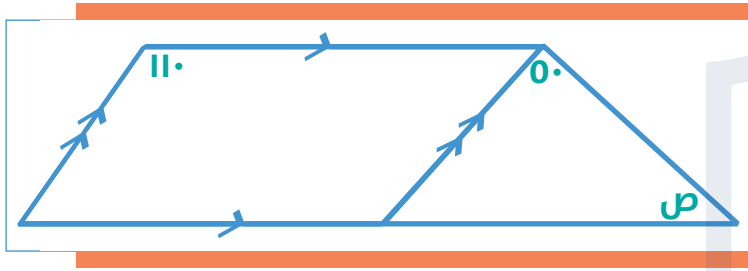

أ) ٦٠

ب) ٧٠

ج) ٩٠

د) ١١٠

بكـر أكاديمي

السؤال ٧١

ما النسبة المئوية للعدد $\frac{١}{٣}$ ؟

أ) ٣٣٪

ب) $\frac{١}{٣}$ ٣٣٪

ج) $\frac{١}{٣}$

د) ٣٣,٣٪

بكـر أكاديمي

السؤال ٧٢

في يوم العيد أطفال يقومون بتوزيع هدايا وكل طفل يوزع على جميع الأطفال ووصل عدد الهدايا إلى ١٢، كم عدد الأطفال؟

أ) ٤
ب) ٦
ج) ٣
د) ٥

بكـر أكاديمي

السؤال ٧٣

أوجد محيط المربع ج د هـ و

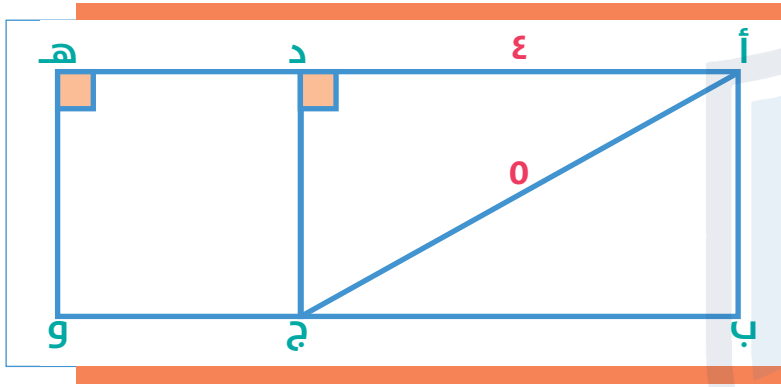

أ) ٦ سم

ب) ٩ سم

ج) ١٢ سم

د) ١٥ سم

السؤال ٧٤

قارن بين

القيمة الأولى	القيمة الثانية
محيط دائرة نصف قطرها ٢ سم	محيط مستطيل عرضه ٢سم ، وطوله ٢

أ القيمة الأولى أكبر

ب القيمة الثانية أكبر

ج القيمتان متساويتان

د المعطيات غير كافية

السؤال ٧٥

قارن بين

القيمة الأولى	القيمة الثانية
٦	عدد القطع المستقيمة في الشكل

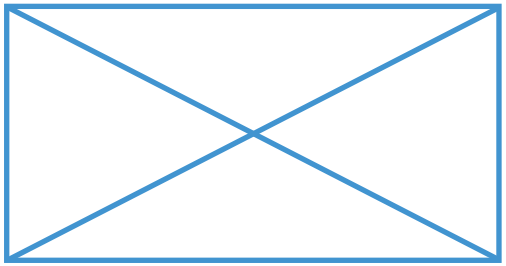

أ) القيمة الأولى أكبر

ب) القيمة الثانية أكبر

ج) القيمتان متساويتان

د) المعطيات غير كافية

بكـر أكاديمي

السؤال ٧٦

في الشكل المجاور : أسطوانة مملوءة بعصير
قارن بين



القيمة الأولى	القيمة الثانية
كمية العصير	٧٥٠

أ) القيمة الأولى أكبر
ب) القيمة الثانية أكبر
ج) القيمتان متساويتان
د) المعطيات غير كافية

بكـر أكاديمي

السؤال ٧٧

قارن بين

القيمة الأولى	القيمة الثانية
ب ج	أ ج

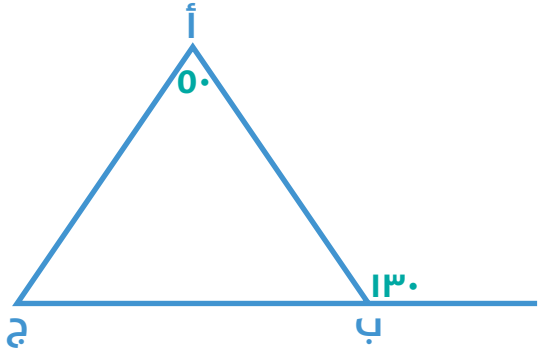

أ) القيمة الأولى أكبر

ب) القيمة الثانية أكبر

ج) القيمتان متساويتان

د) المعطيات غير كافية

بكـر أكاديمي

السؤال ٧٨

إذا كان ٦ > س > ٤ ، ص = ٨

قارن بين

القيمة الأولى	القيمة الثانية
٠,٧٥	$\frac{س}{ص}$

أ القيمة الأولى أكبر

ب القيمة الثانية أكبر

ج القيمتان متساويتان

د المعطيات غير كافية

السؤال ٧٩

أوجد عدد سكان اليمن في الشكل المجاور

الدولة	المساحة	السكان	الكثافة
اليمن	٥٦٠٠٠٠	؟	١٤

أ) ٧٨٤٠٠٠٠

ب) ٧٨٤٠٠٠

ج) ٤٠٠٠٠

د) ٤٠٠٠

بكـر أكاديمي

السؤال ٨٠

قارن بين

القيمة الأولى	القيمة الثانية
(٧ + ٦) + (٦ + ٧)	(٧ + ٧) + (٧ + ٨)

أ القيمة الأولى أكبر

ب القيمة الثانية أكبر

ج القيمتان متساويتان

د المعطيات غير كافية

بكـر أكاديمي

السؤال ٨١

إذا كان مع محمد ١٩٥ ريال من فئة ٥ ، ١٠ ، ٥٠
وعدد الأوراق من كل فئة متساوي ، فكم عدد الأوراق من كل فئة؟

أ) ١
ب) ٢
ج) ٣
د) ٤

بكـر أكاديمي

السؤال ٨٢

أوجد محيط الشكل :

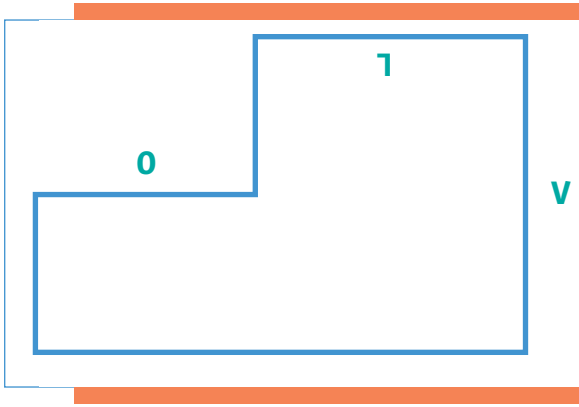

أ) ٣٢

ب) ٢٩

ج) ٣٦

د) ٣٨

السؤال ٨٣

إذا كان س > ع ، ص > ع

قارن بين

القيمة الأولى	القيمة الثانية
س	ص

أ) القيمة الأولى أكبر

ب) القيمة الثانية أكبر

ج) القيمتان متساويتان

د) المعطيات غير كافية

بكـر أكاديمي

السؤال ٨٤

إذا كانت نسبة الموظفين الغير سعوديين في الشركة (أ) ٣٠ ٪ ،
وعدد الموظفين الشركة (ب) نصف عدد موظفين الشركة (أ) ،
ونسبة الموظفين الغير سعوديين في الشركة (ب) ٤٠ ٪ ،
أوجد نسبة الموظفين الغير سعوديين في الشركتين؟

أ) ٢٠٪

ب) ٢٥٪

ج) ٣٣٪

د) ٣٥٪

بكـر أكاديمي

السؤال ٨٥

إذا كان ٢٠^{ل} = ١٦ ، ١٠^{م} = ٢٠ ، ٤^{ن} = ١٠ ، فما قيمة ل × م × ن ؟

أ) ٢

ب) ٨

ج) ١٠

د) ٢٠

بكـر أكاديمي

السؤال ٨٦

خمسة أعداد أصغرهم ٢والمتوسط عدد صحيح والمنوال ٧ والوسيط ٦، أوجد المتوسط؟

أ) ٥
ب) ٦
ج) ٧
د) ٨

بكـر أكاديمي

السؤال ٨٧

قال أب "عمري قبل ١٠ سنوات يساوي اربع أمثال عُمر ابني الآن ، و عُمر ابني بعد سنتين ١٢ سنة" فما عُمر الأب الآن؟

أ) ٣٠
ب) ٤٠
ج) ٥٠
د) ٦٠

بكـر أكاديمي

السؤال ٨٨

ما أكبر فرق بين عدد الطلاب في الهوايات المختلفة؟

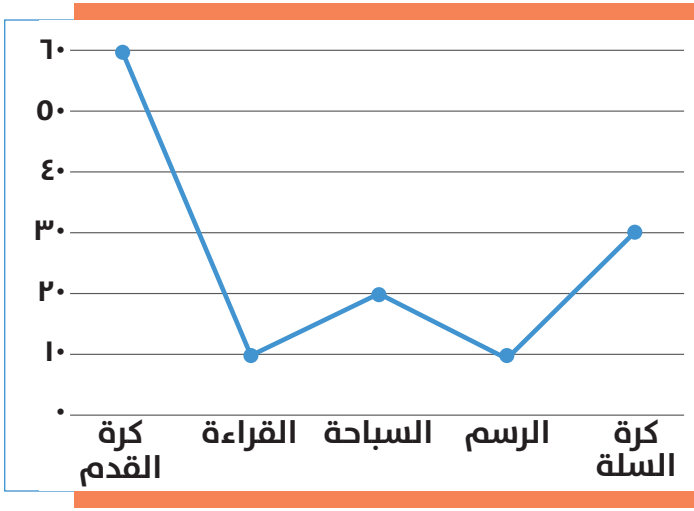

أ) ٣٠

ب) ٤٠

ج) ٥٠

د) ٦٠

السؤال ٨٩

أوجد القيمة التالية : $\frac{٣٩ + ٢٩}{٤٣}$

أ) ٨

ب) ١٠

ج) ١٢

د) ١٤

بكـر أكاديمي

السؤال ٩٠

إذا كان هناك ٣ مجالات و ٤ متقدمين،
وكل إجابة سؤال صحيحة بنقطتين،
وكل خطأ بنقطة واحدة،
فمن أفضل المتقدمين في مجال الحاسب؟

	لغة إنجليزية	حاسب	فرنساوي
الأول	٣	٤	٢
الثاني	٢	٤	٤
الثالث	٥	٤	٣
الرابع	٣	٥	٦

أ) الأول
ب) الثاني
ج) الثالث
د) الرابع

بكـر أكاديمي

السؤال ٩١

إذا كان أ ب = ٤ ، أ ج = ٣
أوجد د هـ ؟

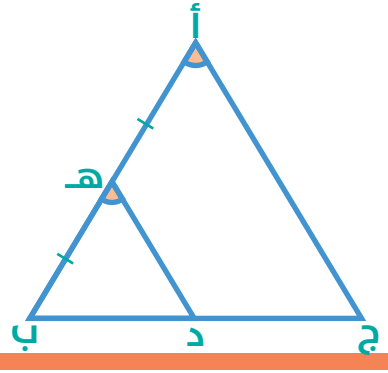

أ) ١,٥
ب) ٢
ج) ٢,٥
د) ٣

بكـر أكاديمي

السؤال ٩٢

إذا حصل الطالب على ٤٥ درجه من ٥٠، كم تكون درجته من ٦٠؟

أ) ٥٠
ب) ٥٢
ج) ٥٤
د) ٥٥

بكـر أكاديمي

السؤال ٩٣

أوجد قيمة : $\frac{١}{٣^{٥}} + \frac{١}{٣^{٥}} + \frac{١}{٣^{٥}}$

أ) $\frac{١}{٣^{٣}}$

ب) $\frac{١}{٣^{٤}}$

ج) $\frac{١}{٣^{٦}}$

د) $\frac{١}{٣^{٩}}$

بكـر أكاديمي

السؤال ٩٤

إذا كان لدينا ثلاثة مربعات، و كان المثلث متطابق الأضلاع ،
أوجد قيمة الزاوية س

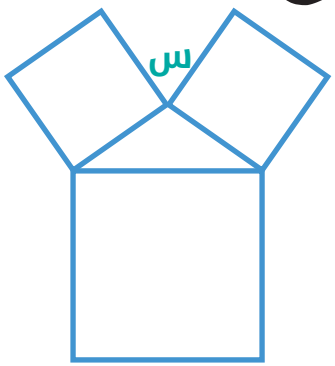

أ) ١٤٠

ب) ١٢٠

ج) ١٥٠

د) ١٨٠

بكـر أكاديمي

السؤال ٩٥

أوجد قيمة : $\frac{\sqrt{١٤٤}}{٢س} = ٣$

أ) ٢

ب) ٤

ج) ٥

د) ٦

بكـر أكاديمي

السؤال ٩٦

٦ أعمدة وكل عمود به عدد من الصناديق أقل من الذي قبله بصندوق واحد فإذا كان العمود الرابع به ٥ صناديق ، كم مجموع الصناديق؟

أ) ٢٤
ب) ٣٠
ج) ٣٣
د) ٤٢

بكـر أكاديمي

السؤال ٩٧

برميل مملوء إلي النصف وزنه ٢٥٠ ، والى ثلاث أرباع وزنه ٣٠٠ ، كم وزن البرميل وهو فارغ ؟

أ) ١٥٠
ب) ٣٠٠
ج) ٢٥٠
د) ٢٠٠

بكـر أكاديمي

السؤال ٩٨

قارن بين

القيمة الأولى	القيمة الثانية
مساحة مربع طول ضلعه ٣سم	مساحة مثلث متطابق الأضلاع طول ضلعه ٤

أ القيمة الأولى أكبر

ب القيمة الثانية أكبر

ج القيمتان متساويتان

د المعطيات غير كافية

بكـر أكاديمي

السؤال ٩٩

تخبز فاطمة كيكة وتحتاج ٥٠ مللتر من عصير البرتقال لكل ١٥٠ مللتر عصير ليمون ، وصنعت ب ٦٠٠ مللتر ليمون ، فكم تحتاج من عصير البرتقال؟

أ) ٢٠٠
ب) ١٥٠
ج) ١٠٠
د) ٢٥٠

بكـر أكاديمي

السؤال ١٠

إذا كان الشكل مستطيل ومساحته ٤٨ ،
أوجد إحداثيات النقطة (ب)

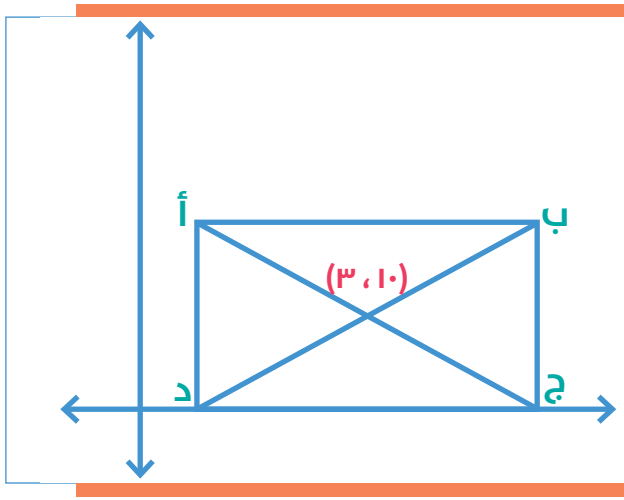

أ (٤ ، ١٢)

ب (١٤ ، ٤)

ج (١٢ ، ٦)

د (١٤ ، ٦)

بكـر أكاديمي