النماذج الأكثر تكرارًا 1

السؤال 1

متتابعة حسابية فيها س= ١٣ ، وكل حد يزيد عن السابق بـ ٣
ما مقدار مجموع س و الحدود الثلاثة السابقة له ؟

أ) ٣٢ ب) ٣٣ ج) ٣٤ د) ٣٥

السؤال 2

الشكل المجاور مستطيل، قارن بين

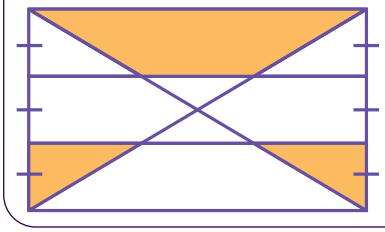

القيمة الأولى	القيمة الثانية
نسبة المظلل إلى الشكل	$\frac{١}{٣}$

أ) القيمة الأولى أكبر ب) القيمة الثانية أكبر ج) القيمتان متساويتان د) المعطيات غير كافية

السؤال 3

قارن بين

القيمة الأولى	القيمة الثانية
٩ - ٠,٠٠٤	٩ - ٠,٠٤٤

أ) القيمة الأولى أكبر ب) القيمة الثانية أكبر ج) القيمتان متساويتان د) المعطيات غير كافية

السؤال 4

ما قيمة س ؟

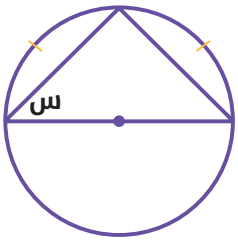

أ) ٣٠ ب) ٤٥ ج) ٦٠ د) ٩٠

السؤال 5

قارن بين

القيمة الأولى	القيمة الثانية
مساحة المظلل	٨ سم^{٢}

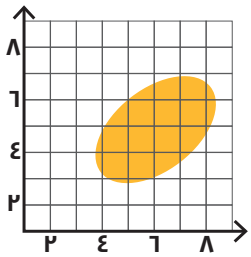

أ) القيمة الأولى أكبر ب) القيمة الثانية أكبر ج) القيمتان متساويتان د) المعطيات غير كافية

السؤال ٦

قارن بين

القيمة الأولى	القيمة الثانية
مساحة المربع	مساحة المستطيل



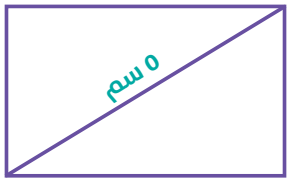

أ القيمة الأولى أكبر
ب القيمة الثانية أكبر
ج القيمتان متساويتان
د المعطيات غير كافية

السؤال ٧

قارن بين

القيمة الأولى	القيمة الثانية
$(٠,١)^{٢٢}$	$(٠,١)^{٣٣}$

أ القيمة الأولى أكبر
ب القيمة الثانية أكبر
ج القيمتان متساويتان
د المعطيات غير كافية

السؤال ٨

عدد أضفنا على نصفه ١٣ فأصبح ٢٣

أ ١٥
ب ٢٠
ج ١٨
د ٣٠

السؤال ٩

طالب أعار أصدقاءه ٦ كتب وقام باستعارة ٤ كتب من مكتبة الحي فأصبح معه ٢٨ كتاب ، كم كان عدد الكتب معه؟

أ ٢٤
ب ٣٠
ج ٣٢
د ٣٦

السؤال ١٠

لدى سلمى أخت اكبر منها ب ٨ سنوات و أخت اصغر منها بسنتين وحاصل ضرب أعمار أخواتها = ٥٦ ، فكم عمر سلمى ؟

أ ٨
ب ٩
ج ٦
د ٤

السؤال ١١

كم مثلث في الشكل ؟

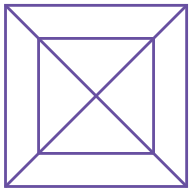

أ ٨
ب ١٠
ج ١٢
د ١٦

السؤال ١٢

$\frac{٧^{س}}{٧^{-٣}}$ = ٧٥ ، أوجد قيمة س ؟

أ) ١ ب) ٢ ج) ٣ د) ٤

السؤال ١٣

في الشكل التالي ، س بالسنتمتر تساوي :

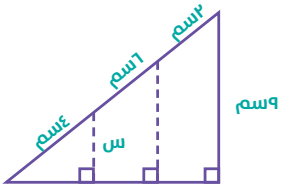

"الرسم ليس على القياس"

أ) ٦ ب) ٥ ج) ٤ د) ٣

السؤال ١٤

عمر هند بعد ٩ سنوات = مثلي عمر هند قبل ٣ سنوات ،
فكم عمر هند الآن ؟

أ) ١٥ ب) ١٢ ج) ٩ د) ٣

السؤال ١٥

إذا كان طول ضلع المربع = ٢٠ سم
احسب مساحة الجزء المظلل بالأخضر



أ) ١٥٧ ب) ٣١٤ ج) ٦٢٨ د) ٤٠٠

السؤال ١٦

قارن بين

القيمة الأولى	القيمة الثانية
$\frac{٠,٠٣}{٠,٠٣} + \frac{٠,٣}{٠,٣}$	١٠,٢

أ) القيمة الأولى أكبر ب) القيمة الثانية أكبر ج) القيمتان متساويتان د) المعطيات غير كافية

السؤال ١٧

موقف سيارات يتسع ٤٣٢ سيارة مقسمة إلى ستة أجزاء كل جزء مكون من ٧٢ موقف ومرتبة حسب اللون
(أحمر - أبيض - أخضر - أصفر - أسود - أزرق) على الترتيب ،
ما لون السيارة في الموقف رقم ٣٦٠ ؟

أ) أبيض ب) أسود ج) أزرق د) أصفر

السؤال ١٨

مستطيل طوله $\frac{١}{٣}$ ٥ وعرضه $\frac{١}{٤}$ ٢ ،
احسب مساحته

أ) ١٢ ب) ١٢,٥ ج) ١١ د) ١١,٥

السؤال ١٩

كم عدد المربعات في الشكل؟

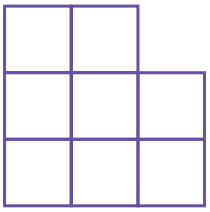

أ) ١١ ب) ٩ ج) ٣٢ د) ٨

السؤال ٢٠

قارن بين

القيمة الأولى	القيمة الثانية
مساحة المثلث المظلل	مجموع مساحتي المثلثين الغير مظللين

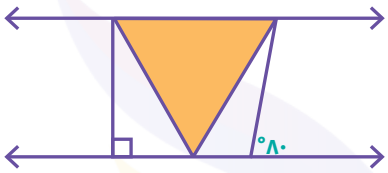

أ) القيمة الأولى أكبر ب) القيمة الثانية أكبر ج) القيمتان متساويتان د) المعطيات غير كافية

السؤال ٢١

قيمة ١٠ قطع فضية وقطعة واحدة ذهبية تساوي قيمة ٣ قطع ذهبية ،
قارن بين

القيمة الأولى	القيمة الثانية
قيمة قطعة واحدة ذهبية	قيمة ٥ قطع فضية

أ) القيمة الأولى أكبر ب) القيمة الثانية أكبر ج) القيمتان متساويتان د) المعطيات غير كافية

السؤال ٢٢

في الشكل المجاور: مستطيل محيطه = ٢٠ ،
ومساحته = ٢٤ وجميع الدوائر متطابقة ،
أوجد طول قطر الدائرة

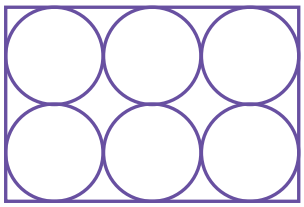

أ) ٢٢ ب) ٢ ج) ١٢ د) ٤

السؤال ٢٣

قارن بين

القيمة الأولى	القيمة الثانية
$\frac{١١}{١١١}$	٠,١

أ القيمة الأولى أكبر
ب القيمة الثانية أكبر
ج القيمتان متساويتان
د المعطيات غير كافية

السؤال ٢٤

إذا كان $٢^{ن} + ٢^{ن} + ٢^{ن} + ٢^{ن} = ٢^{٨}$
ما قيمة ن؟

أ ٢
ب ٤
ج ٦
د ٨

السؤال ٢٥

اشترى شخص ١٠٠ سهم بمبلغ ٦٠٠٠٠ ريال
فنقص قيمة السهم الواحد ٢٠٠ ريال، كم نسبة خسارته؟

أ $\frac{١}{٦}$
ب $\frac{١}{٢}$
ج $\frac{١}{٤}$
د $\frac{١}{٣}$

السؤال ٢٦

قارن بين

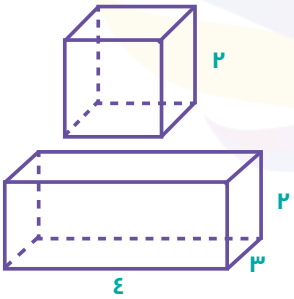

القيمة الأولى	القيمة الثانية
حجم المكعب	ثلث حجم متوازي المستطيلات

أ القيمة الأولى أكبر
ب القيمة الثانية أكبر
ج القيمتان متساويتان
د المعطيات غير كافية

السؤال ٢٧

قارن بين

القيمة الأولى	القيمة الثانية
١٢٥٪ من ٣٥	٣٥٪ من ١٢٥

أ القيمة الأولى أكبر
ب القيمة الثانية أكبر
ج القيمتان متساويتان
د المعطيات غير كافية

السؤال ٢٨

١٠ صناديق فيهم أقلام حبر ورصاص ٤ حبر ٥ رصاص ٢ حبر و رصاص ،
كم عدد الصناديق الفارغة ؟

أ ٢
ب ٣
ج ٤
د ٦

السؤال ٢٩

قارن بين

القيمة الأولى	القيمة الثانية
قياس الزاوية ج	١١١

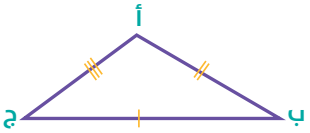

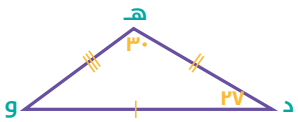

أ) القيمة الأولى أكبر
ب) القيمة الثانية أكبر
ج) القيمتان متساويتان
د) المعطيات غير كافية

السؤال ٣٠

ما السنة التي تقل ب ٩ ملايين عن سنة ١٤٣٠؟

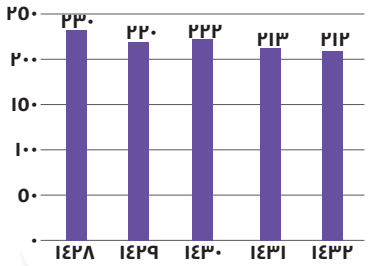

أ) ١٤٢٩
ب) ١٤٣١
ج) ١٤٣٢
د) ١٤٢٨

السؤال ٣١

وزعت ٦٤ طابعة و ٤٨ حاسبة على عدد من الغرف
بحيث يكون عدد الطابعات والحاسبات متساوي في كل غرفة ،
ما أكبر عدد من الطابعات و الحاسبات في كل غرفة؟

أ) ٨
ب) ١٢
ج) ١٦
د) ٢٤

السؤال ٣٢

في الشكل المجاور أ ب ج د مربع مساحته ١٠٠ سم^{٢} ،
يعلوه مثلث أهـ د مساحته ١٠ سم^{٢} ،
أوجد طول الخط الأحمر ؟

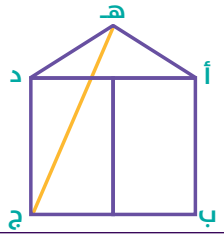

أ) ١٣
ب) ١٤
ج) ١١
د) ١٢

السؤال ٣٣

اشترى خالد حزمة من الأقلام بها ١٢ قلم ،
واشترى حزمة من الدفاتر بها ٨ دفاتر ،
كم حزمة من الدفاتر يشتري ليتساوى ما معه من الأقلام والدفاتر ؟

أ) ٣
ب) ٤
ج) ٥
د) ٦

السؤال ٣٤ ماهو الوسيط لعدد الأطفال؟

عدد الأطفال في ٢٠ أسرة

٤	٣	٢	٢	١
٣	٥	١	٤	٢
٢	٥	٣	٣	٥
٦	١	٣	٤	٣

أ) ٣ ب) ٥ ج) ٦ د) ٨

السؤال ٣٥ في الشكل المجاور :
أوجد طول الضلع أ هـ

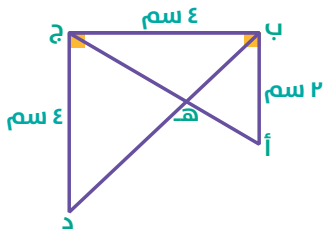

أ) $\frac{٢\sqrt{٥}}{٤}$ ب) $\frac{٢\sqrt{٥}}{٣}$ ج) $٢\sqrt{٥}$ د) $\frac{٥\sqrt{٥}}{٣}$

السؤال ٣٦ أوجد قيمة :

$$\frac{١٤٣٧^{٢} - ٢٠١٥^{٢}}{٢٠١٥ + ١٤٣٧} - \frac{١٤٣٧^{٢} - ٢٠١٥^{٢}}{٢٠١٥ + ١٤٣٧}$$

أ) ٠ ب) ٢ ج) -١ د) -٢٢٩٢

السؤال ٣٨ سيارة تسير بسرعة ما وقطعت نصف المسافة في ٤٠ دقيقة ثم أسرعت وقطعت المسافة المتبقية في ٢٠ دقيقة ،
كم سرعتها الابتدائية بوحدة كلم/ساعة إذا علمت أن المسافة ١٦٠ كلم؟

أ) ٦٠ ب) ٩٠ ج) ١٢٠ د) ١٤٠

السؤال ٣٩ أوجد قيمة الضلع المجهول :

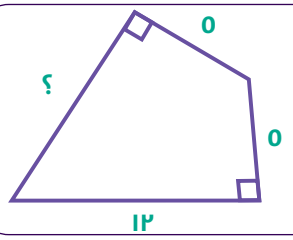

أ) ١٠ ب) ١١ ج) ١٢ د) ١٣

السؤال ٤٠ الشكل المجاور مربع ، أوجد قيمة س

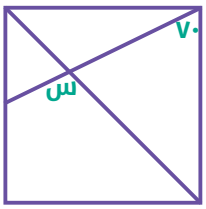

أ) ٧٠ ب) ٦٥ ج) ١١٥ د) ١٢٠

السؤال ٤١ أ ب ج د متوازي أضلاع ، المثلث أ ب ج متطابق الزوايا ، فأوجد محيط أ ج ب د

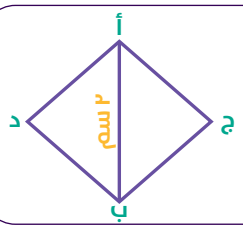

أ) $\sqrt{٣}$ ٣ ب) ٨ ج) ١٢ د) $\sqrt{٣}$ ٩

السؤال ٤٢ إذا كان هناك صندوق يحمل ٩ بيضات ومع خالد ١٢٠ بيضة ، فكم صندوق يحتاج لحملها كلها ؟

أ) ٢١ ب) ١٤ ج) ١٩ د) ١١

السؤال ٤٣ سيارتان تتحركان في نفس الوقت من المدينة (أ) إلى المدينة (ب) وصلت ، السيارة الأولى بعد ساعتين ونصف ، ووصلت السيارة الثانية بعد ساعتين

قارن بين

القيمة الأولى	القيمة الثانية
سرعة السيارة ٢	سرعة السيارة ١

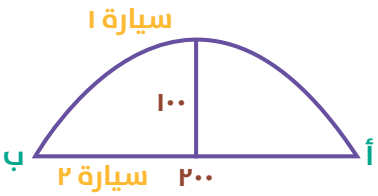

أ) القيمة الأولى أكبر ب) القيمة الثانية أكبر ج) القيمتان متساويتان د) المعطيات غير كافية

السؤال ٤٤ أوجد قيمة : $\frac{٥^{٧} + ٥^{٨}}{٥^{٧}}$

أ) ١٠ ب) ١٢ ج) ٢٦ د) ٦

السؤال ٤٥ قطعة خشب طولها ٢٤ متر، يُراد تقطيعها إلى ٢٤ قطعة صغيرة ، كم عدد مرات تقطيعها؟

أ) ٢٤ ب) ٢٥ ج) ٢٣ د) ٢٢

السؤال ٤٦ مدرب يتقاضى ٦٠٠ ريال + جوال إذا عمل ٦ ساعات و ١٠٠ ريال + جوال إذا عمل ٤ ساعات ، كم سعر الجوال ؟

أ) ٥٠٠ ب) ٧٠٠ ج) ٩٠٠ د) ١١٠٠

السؤال ٤٧ أوجد قيمة س

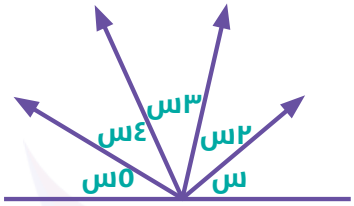

أ) ١٢ ب) ١١ ج) ١٥ د) ١٣

السؤال ٤٨ ما عدد المئات في العدد : ٧٩٦٣٥ ؟

أ) ٧٩٦ ب) ٩٦ ج) ٦٣ د) ٦

السؤال ٤٩ في الشكل المجاور مستطيلات متطابقة، إذا كان محيط المستطيل الكبير = ٣٤ أوجد مساحته؟

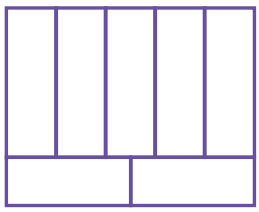

أ) ٤٩ ب) ٦٠ ج) ٧٠ د) ٨٠

السؤال ٥٠ $\frac{٢}{\sqrt{٣} - ١}$ = ...

أ) $\sqrt{٣} + ١$ ب) $\sqrt{٣} - ١$ ج) $\sqrt{٣} - ٢$ د) $\sqrt{٣} + ٢$

السؤال ٥١

قارن بين

القيمة الأولى	القيمة الثانية
مساحة المثلث التي بداخل المربع	مساحة المثلث التي بداخل المستطيل



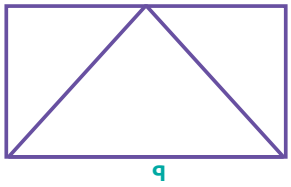

أ القيمة الأولى أكبر
ب القيمة الثانية أكبر
ج القيمتان متساويتان
د المعطيات غير كافية

السؤال ٥٢

إذا كان المسافة من س إلى ص = ١٢، والمسافات بينهما متساوية

قارن بين

القيمة الأولى	القيمة الثانية
٣	س ل

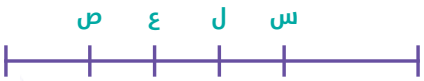

أ القيمة الأولى أكبر
ب القيمة الثانية أكبر
ج القيمتان متساويتان
د المعطيات غير كافية

السؤال ٥٣

إذا كان ٨ أشخاص يجلسون على ٣ طاولات كما هو مبين بالشكل، كم شخص يمكنهم الجلوس على ١٣ طاولة؟

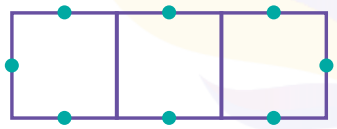

أ ٣٠
ب ٣٩
ج ٢٨
د ٢٥

السؤال ٥٤

كم عدد المستطيلات في الشكل؟



أ ٦
ب ١٠
ج ١٥
د ٢٠

السؤال ٥٥

أوجد الحد التالي : ٣ ، ٥ ، ٩ ، ١٧ ، ٣٣ ، .....

أ ٦٠
ب ٦٢
ج ٦٣
د ٦٥

السؤال ٥٦

إذا تم تقسيم الشكل المجاور إلى قطع متساوية ، ما نسبة مساحة المظلل إلى الشكل؟

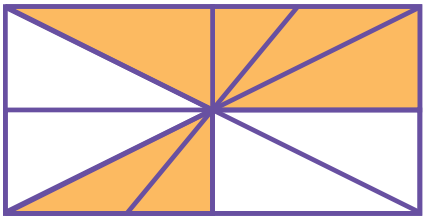

أ) ٢٥٪ ب) ٤٠٪ ج) ٥٠٪ د) ٦٠٪

السؤال ٥٧

قارن بين

القيمة الأولى	القيمة الثانية
$\sqrt{٤٩ + ٢٥}$	$\sqrt{٤٩} + \sqrt{٢٥}$

أ) القيمة الأولى أكبر ب) القيمة الثانية أكبر ج) القيمتان متساويتان د) المعطيات غير كافية

السؤال ٥٨

قارن بين

القيمة الأولى	القيمة الثانية
$٦^{٨}$	$٦^{٨}$

أ) القيمة الأولى أكبر ب) القيمة الثانية أكبر ج) القيمتان متساويتان د) المعطيات غير كافية

السؤال ٥٩

شخص لديه عاملين ونسبة الأجر لكل منهما ٥ : ٦ و الفرق بينهم بالأجر ٢٠٠ ، فكم دفع الشخص لهما؟

أ) ١١٠٠ ب) ٣١٠٠ ج) ٢٠٠٠ د) ٢٢٠٠

السؤال ٦٠

ما الدرجة التي حصل عليها أكبر عدد من الطلاب ؟

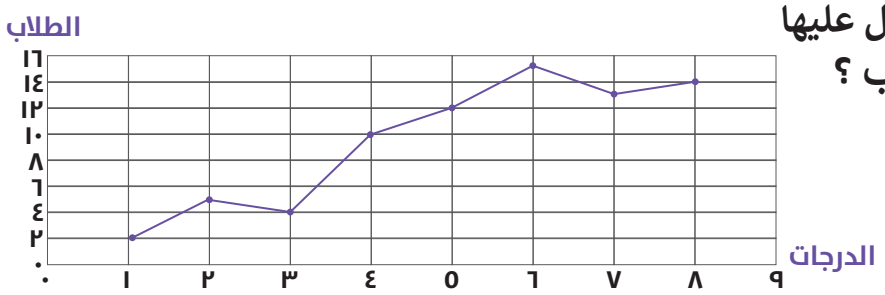

أ) ٣ ب) ٤ ج) ٥ د) ٦

السؤال ٦١ أوجد طول سور الحديقة ،
نق = ١

أ) ط + ٢ ب) ط + ٤ ج) ط + ٦ د) ط + ٩

السؤال ٦٢ في الشكل المجاور أوجد طول أ ب ؟

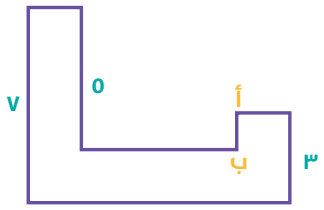

أ) ٤ ب) ٣ ج) ٢ د) ١

السؤال ٦٣ كم عدد المستطيلات في الشكل ؟

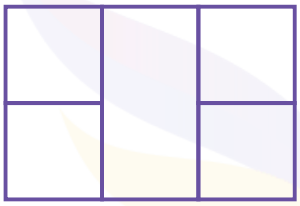

أ) ١٠ ب) ١١ ج) ١٢ د) ١٣

السؤال ٦٤ إذا كان $٢^{٢٠١٣}$ = $٢^{٢٠١٢}$ × س ، أوجد قيمة س

أ) ٢٠ ب) ١٢ ج) ٢٢ د) ٤٢

السؤال ٦٥ إذا كان $\sqrt{٢٠}$ × $\sqrt{٥}$ = ٢ × ٥ ،
أوجد قيمة $\sqrt{٢٠}$ + $\sqrt{٥}$

أ) ٢$\sqrt{٥}$ ب) ٣$\sqrt{٥}$ ج) ٤$\sqrt{٥}$ د) ٥$\sqrt{٥}$

السؤال ٦٦ إذا كان سعر لتر الوقود ٥ريال ،
فما أكثر سيارة موفرة للوقود؟

العمر	المسافة	أجرة السائق	التكلفة
الأول	١٠٠٠	٦٠٠	١١٠٠
الثانية	١٨٠٠	٤٠٠	١١٥٠
الثالثة	١٥٠٠	٥٠٠	١٢٥٠
الرابعة	١٢٠٠	٥٠٠	١٥٠٠

أ) الأولى ب) الثانية ج) الثالثة د) الرابعة

السؤال ٦٧

من الجدول التالي :

في أي عام كانت الجزائر أعلى من السعودية؟

الدول	٢٠٠٠	٢٠٠١	٢٠٠٢	٢٠٠٣
السعودية	٢,٧	٤,٢	٦,٣	٦,٥
ليبيا	١,٢	٣,١	٣,٩	٤,٤
قطر	١,٧	٤,٧	٤,٩	٥,٦
الجزائر	١,٥	٢,٠	٢,٧	٧
الكويت	١,٩	٢,٥	٣,٤	٣,٤
العراق	٢,٤	٢,١	٢,٦	٢,٦
عمان	١,٣	٢,٠	٢,٨	٢,٨

أ) ٢٠٠٠
ب) ٢٠٠١
ج) ٢٠٠٢
د) ٢٠٠٣

السؤال ٦٨

أوجد قيمة $\sqrt{\frac{٤^{٣} + ٤^{٦}}{٤ + ٤^{٤}}}$

أ) ٢
ب) ٤
ج) ٨
د) ١٦

السؤال ٦٩

ما نسبة زيادة ميزانية المعهد من عام ١٤٢٨ إلى عام ١٤٢٩ ؟

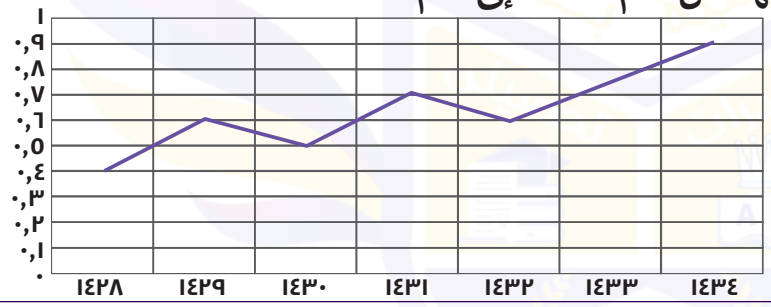

أ) ٧٥٪
ب) ٥٠٪
ج) ٣٣٪
د) ٢٠٪

السؤال ٧٠

في الجدول السابق

ما الدولة التي ثبت فيها معدل التضخم في عامين متتاليين؟

	٢٠٠٣	٢٠٠٤	٢٠٠٥	٢٠٠٦	٢٠٠٧
البحرين	٠,٧	٢,٤	٢,٨	٢,٩	٢,٩
السعودية	١,١	٢,١	٢,٢	١,٤	١,٣
قطر	١,٢	١	٢,١	٢,٤	١,٦
الكويت	١,١	١,٢	١,١	١,٥	١,٧
الأمارات	٢,٧	٢,٣	٢,٥	١,٨	١,٩
مجلس التعاون	١,٦	٢,٤	٢,٦	٢,٨	٢,٩
دول اليورو	٢,٢	٢,٣	٢,١	٢,٣	٢,٥

أ) السعودية
ب) البحرين
ج) الأمارات
د) قطر

السؤال ٧١

$\frac{٣^{٤} + ٩^{١٢}}{٣^{٢}}$ = ...

أ) $٣^{٢٢}$ ب) $٣^{٢٤}$ ج) $٣^{٢٦}$ د) $٣^{٢٨}$

السؤال ٧٢

في الشكل التالي :
احسب مساحة الشكل المظلل

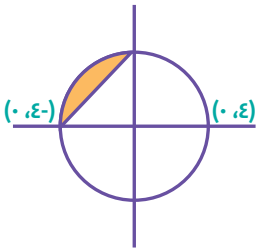

أ) ٤ط - ٨ ب) ٤ط - ١٦ ج) ٨ط - ٨ د) ١٦ط - ٨

السؤال ٧٣

أوجد قيمة س

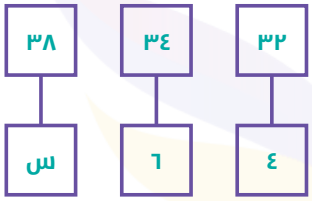

أ) ١٢ ب) ١٠ ج) ٦ د) ١٦

السؤال ٧٤

أوجد مساحة المضلل :

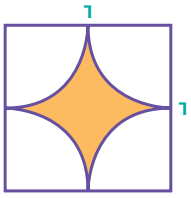

أ) ٣٠ - ٣ط ب) ٢٤ - ٩ط ج) ٣٦ - ٩ط د) ١٨ - ٣ط

السؤال ٧٥

أوجد الحد التالي : ٢ ، ٣ ، ٥ ، ٨ ، ١٢ ، .....

أ) ١٢ ب) ١٧ ج) ١٩ د) ١٠

السؤال ٧٦

قارن بين

القيمة الأولى	القيمة الثانية
أكبر عدد أولي من ٥٠ إلى ٦٤	٦٣

أ) القيمة الأولى أكبر
ب) القيمة الثانية أكبر
ج) القيمتان متساويتان
د) المعطيات غير كافية

السؤال ٧٧

أوجد قيمة (-٦) × ٢ + ١

أ) -١٢
ب) -١١
ج) ١٠
د) ٥

السؤال ٧٨

إذا كان $\sqrt{\text{س} + ٣٢}$ = ٩ ، أوجد قيمة س

أ) ٤٨
ب) ٤٩
ج) ٥٠
د) ٥١

السؤال ٧٩

نقاط في المستوى الإحداثي م ، ن ، ج ، ل ، ف ، تمثل قرى
إذا كانت ل تقع شرق م وغرب ن ، و ج تقع جنوب شرق ن ،
و م تقع جنوب شرق ف ، فأي حرف يقع في أقصى الغرب؟

أ) ف
ب) ج
ج) ن
د) ل

السؤال ٨٠

إذا أجاب طالب على ٣٠ سؤال في الاختبار وهي تمثل ٦٠ ٪ ،
كم عدد الأسئلة التي لم يجب عنها ؟

أ) ١٠
ب) ١٥
ج) ٢٠
د) ٣٠

السؤال ٨١

كم عدد المئات في العدد ٩٩٨٦٠ ؟

أ) ٩٩٨٠٠
ب) ٩٩٨
ج) ٩٩٩٠٠
د) ٩٩٩

السؤال ٨٢

ما عدد الأعداد الصحيحة من ١ إلى ٤٠ التي تحتوي خاناتها
على ٢ أو ٣ أو كليهما ؟

أ) ٢٠
ب) ٢٢
ج) ٢
د) ٢٦

السؤال ٨٣
إذا كان ن عدد طبيعي ، أوجد متوسط : ن ، ن + ٢ ، ن + ١٠

أ) ٣ن + ٤ ب) ٣ن + ١٢ ج) ن + ٥ د) ن + ٤

السؤال ٨٤
ما مجموع أرقام العدد ٢٩٩٩ ؟

أ) ٢٧ ب) ٣٦ ج) ٤٥ د) ٥٤

السؤال ٨٥
ما العدد الذي ثلثه يساوي $\frac{١٠}{٤}$ ؟

أ) ١ ب) ٢ ج) ٣ د) ٤

السؤال ٨٦
ما الفرق بين أكبر عدد و أصغر عدد مكون من الأرقام
(١ ، ٢ ، ٣ ، ٤) بحيث يكون أكبر من ١٠٠٠ بدون تكرار الرقم ؟

أ) ٢٣٨٧ ب) ٣٢٨٧ ج) ٣١٧٨ د) ٣٠٨٧

السؤال ٨٧
إذا كان $٢^{س+١} = ٦$ ، فما قيمة $١٦^{س}$؟

أ) ٩ ب) ١٦ ج) ٣٢ د) ٨١

السؤال ٨٨
ما الفرق بين أصغر عدد فردي مكون من ٣ أرقام
وأكبر عدد زوجي مكون من رقمين؟

أ) ٦ ب) ٩ ج) ٢٠ د) ٣

السؤال ٨٩
قارن بين

القيمة الأولى	القيمة الثانية
$٨^{١٠}$	$(٣^{٤})^{٥}$

أ) القيمة الأولى أكبر ب) القيمة الثانية أكبر ج) القيمتان متساويتان د) المعطيات غير كافية

السؤال ٩٠
كم عدد فردي بين الكسرين $\frac{١٧}{٥}$ و $\frac{٨٥}{٧}$ ؟

أ) ٤ ب) ٦ ج) ٥ د) ٨

السؤال ٩١ ما إحداثيات النقطة أ ؟

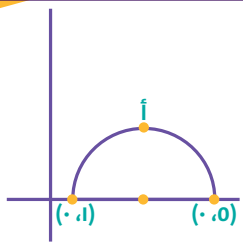

أ) (٣، ٢)　ب) (١، ٢)　ج) (٢، ٢)　د) (٢، ٣)

السؤال ٩٢ قارن بين

القيمة الأولى	القيمة الثانية
$\left\lvert \frac{٢٥٧٣}{٤٣٢١} \right\rvert$	$\left\lvert \frac{-٦٧٣٥}{٣٤٥٦} \right\rvert$

أ) القيمة الأولى أكبر　ب) القيمة الثانية أكبر　ج) القيمتان متساويتان　د) المعطيات غير كافية

السؤال ٩٣ في الشكل المجاور :
ما إجمالي الاستهلاك يوم الثلاثاء ؟

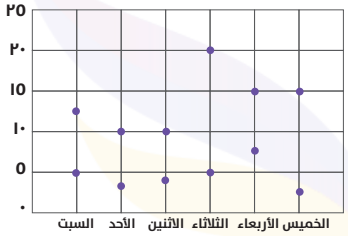

أ) ١٠　ب) ٢٥　ج) ١٥　د) ٣٠

السؤال ٩٤ قارن بين

القيمة الأولى	القيمة الثانية
س	٤٠

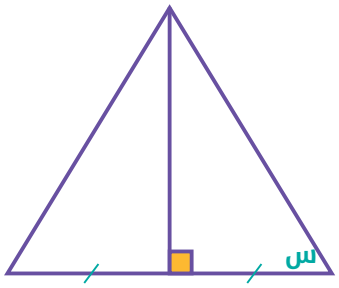

أ) القيمة الأولى أكبر　ب) القيمة الثانية أكبر　ج) القيمتان متساويتان　د) المعطيات غير كافية

السؤال ٩٥ في الشكل المجاور مستطيل أبعادهم ٢ و ٤ ،
أوجد محيطه

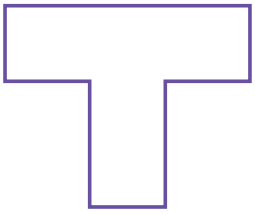

أ) ١٦　ب) ٢٠　ج) ١٨　د) ١٢

السؤال ٩٦

قارن بين

القيمة الأولى	القيمة الثانية
ص	٥٩

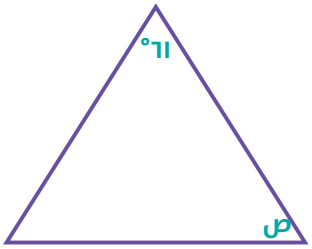

أ القيمة الأولى أكبر
ب القيمة الثانية أكبر
ج القيمتان متساويتان
د المعطيات غير كافية

السؤال ٩٧ أي الشركات أكثر ربحًا؟

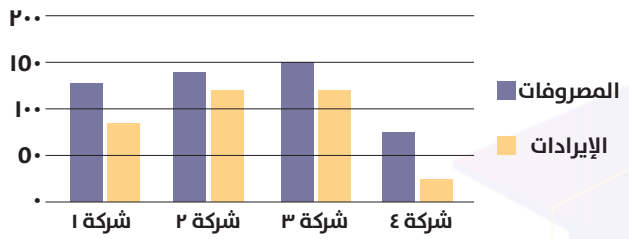

أ شركة ١
ب شركة ٢
ج شركة ٣
د شركة ٤

السؤال ٩٨ أوجد قيمة س

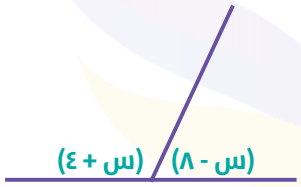

أ ٩٢
ب ٩٦
ج ٨٩
د ٨٨

السؤال ٩٩ إذا تضاعف النفايات المعدنية على حساب الورقية ، كم تصبح نسبة النفايات الورقية؟

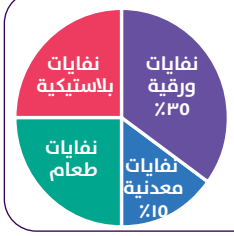

أ ٣٠٪
ب ٢٥٪
ج ٢٠٪
د ١٥٪

السؤال ١٠٠ إذا كانت م > ن > صفر

قارن بين

القيمة الأولى	القيمة الثانية
م + ن	م ن

أ القيمة الأولى أكبر
ب القيمة الثانية أكبر
ج القيمتان متساويتان
د المعطيات غير كافية